

הערות הבודק

$$-\omega^2 m e^{ikan} = -\alpha e^{ikan} + \alpha e^{ika(n+1)} + \alpha e^{ika(n-1)} - \alpha e^{ikan} \quad / : e^{ikan}$$

$$-\omega^2 m = -\alpha + \alpha e^{ika(n+1-n)} + \alpha e^{ika(n-1-n)} - \alpha$$

$$-\omega^2 m = \alpha\left(-2 + e^{ika} + e^{-ika}\right)$$

$$e^{ika} + e^{-ika} = 2\cos(ka)$$

$$\Rightarrow \quad -\omega^2 m = \alpha\left(-2 + 2\cos(ka)\right)$$

$$-\omega^2 m = -2\alpha\left(1 - \cos(ka)\right)$$

$$1 - \cos\theta = 2\sin^2\left(\frac{\theta}{2}\right)$$

$$\Rightarrow \quad -\omega^2 m = -2\alpha\left(2\sin^2\left(\frac{ka}{2}\right)\right) \quad / : -m$$

$$\omega^2 = \frac{2\alpha}{m}\left(2\sin^2\left(\frac{ka}{2}\right)\right) = \frac{4\alpha}{m}\sin^2\left(\frac{ka}{2}\right)$$

$$\Rightarrow \boxed{\omega(k) = \sqrt{\frac{4\alpha}{m}}\cdot\left|\sin\left(\frac{ka}{2}\right)\right|}$$

קיבלנו את יחס הנפיצה: קשר בין ω ל-k.

כיוון שמדובר בגל הנע בתווך בדיד, ניתן לראות שאם נקח k גדול מדי, כלומר a שהוא קבוע הסריג יהיה גדול מדי, אז נקבל ω שלילי, שזה לא נכון פיזיקלית, לכן k חייב להיות קטן מספיק.

אזור זה נקרא אזור ברילואן הראשון, ו-θ -

$$\sin(\theta) \sim \theta$$

אזור ברילואן,

כיוון שמדובר בגל הנע בתווך בדיד, ניתן לראות שאם נקח k גדול מדי, אז נקבל ω שלילי, שזה לא נכון פיזיקלית, לכן k חייב להיות קטן מספיק.

אזור זה נקרא אזור ברילואן הראשון, ו-θ -

הערות הבודק

בנוסף הראינו כבר שהגל שנע ימינה, הפעם עקום [illegible] הוא בעל

קבוע פאזה k כלשהו:

$$\frac{p_k}{2} \sim \left(\frac{p_k}{2}\right) \sin(\text{פאזה } k \text{ כלשהו})$$

$$\omega(k) = \sqrt{\frac{\alpha_m}{m}} \cdot \frac{p_k}{2} \approx \omega(k) \equiv$$

$$\boxed{\omega(k) = \left(\frac{p}{2} \cdot \sqrt{\frac{\alpha_m}{m}}\right) \cdot k}$$

כלומר, אם כל הסדנים בין m ל-k עוברים בדיוק כמו k, כך גם כל הגלים.

(2) אף התנגדות קווית שלא תלך ל-$k \cdot p$ בקירוב משמעותי, שאינה פרופורציה

לקבוע שלנו (m, p, α) בכוח k שווה ל-m, כך גם כל הגלים.

בשאלה. בדוגמה שלנו כל הסדנים הם בעלי אותה מסה, ולכן הם יכולים לנוע

כך: הנקודות במעבר.

הערות הבודק

25/25

טיוטה למבחן

$$\begin{pmatrix} 5y \\ 0 \end{pmatrix} = \begin{pmatrix} a & b \\ c & d \end{pmatrix} \cdot \begin{pmatrix} y \\ 0 \end{pmatrix}$$

$$d = f_1 - \frac{1}{\sqrt{10}} f_1$$

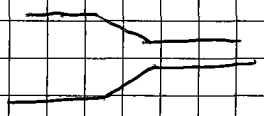
$$f_1 - d = \frac{1}{\sqrt{10}} f_1 \qquad 1 - \frac{d}{f_1} = \frac{1}{\sqrt{10}}$$

$$d - f_1 - f_2 = 0 \qquad f_1 - \frac{1}{\sqrt{10}} f_1 - f_2 = 0$$

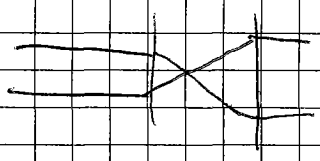
$$f_2 = -\frac{1}{\sqrt{10}} f_1$$

הערות הבודק

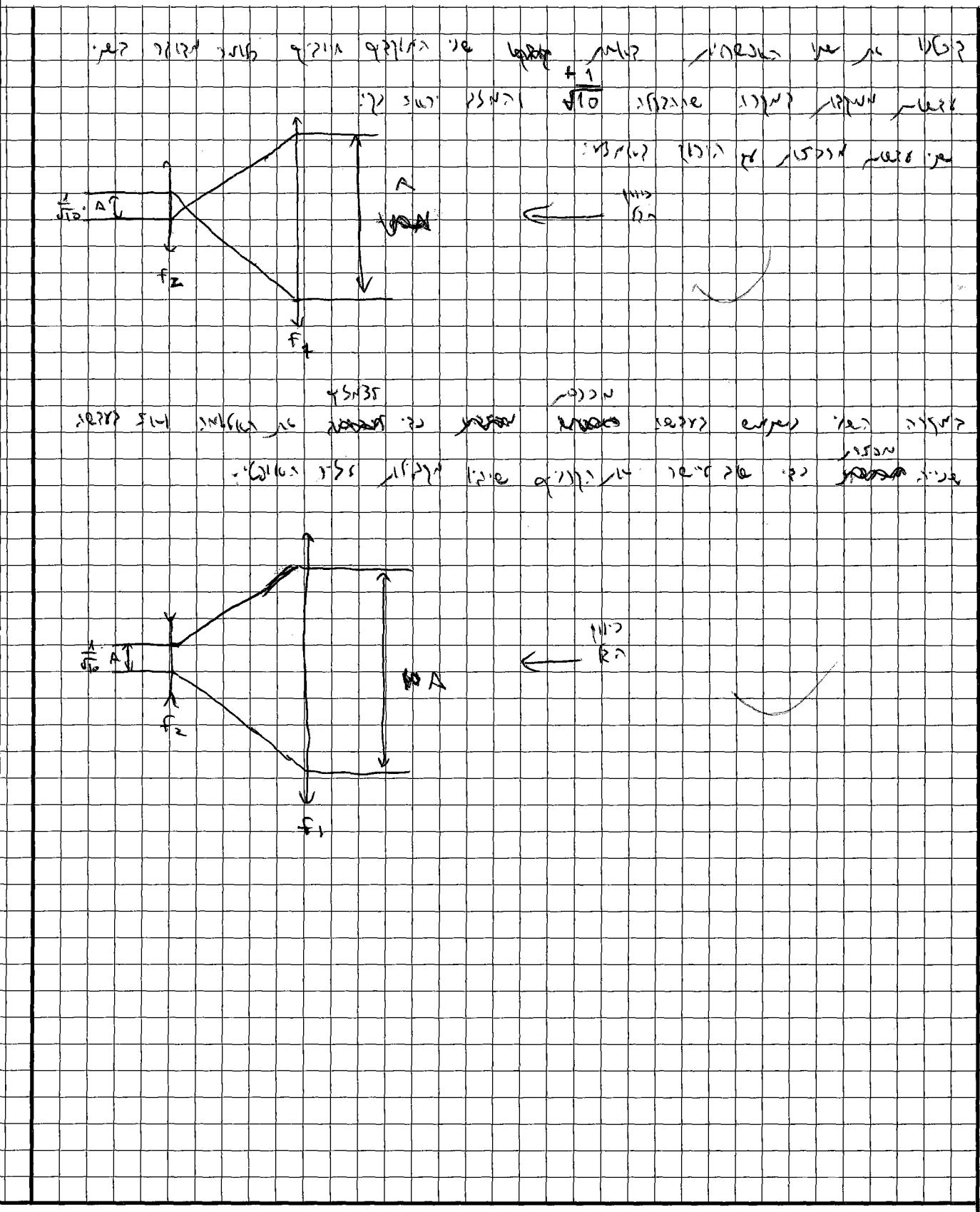
טיוטה למבחן



$\omega = k \cdot v_{ph}$ $\quad k = \frac{\omega}{v_{ph}}$

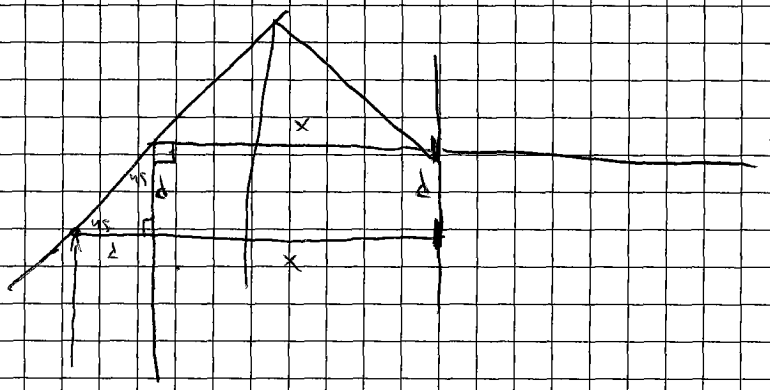


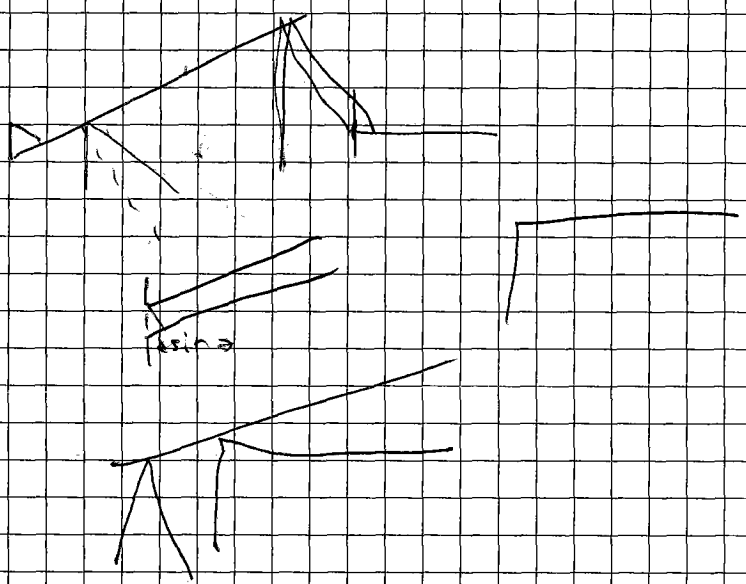
הערות הבודק



הערות הבודק

טיוטה למבחן





$$A(\cos(\omega t - kr_1 + \Delta\varphi) + \cos(\omega t - kr_2 + \Delta\varphi_2)$$

$$Ae^{i(\omega t - kr_1)} + Ae^{i(\omega t - kr_2)}$$

הערות הבודק

הערות הבודק

ב) מיקום הפסים המוארים ביותר הוא כאשר $\theta = 0^\circ$ וזו המרחק שבין כל שני פסים מוארים עוקבים

נבדוק את הפסים שהם מוארים ביותר ומחוץ לזה שמוארים פחות ונקבע את

מיקומם הכללי (ניתוח התאבכות כללית) בדיוק כמו שעשינו בשאלה הקודמת

שלנו מקורות בשלב משפך ושני הקרנים שלנו שמקורם משותף. הראשון שבא

נקודה P על המסך יהיה:

$$E_P = \frac{E_0}{D}\left[e^{i(kx_1 - \omega t + \theta_1)} + e^{i(kx_2 - \omega t + \theta_2)}\right]$$

כאשר $x_2 \approx x_1 + d\sin\theta$

$$E_P = \frac{E_0}{D}\left[e^{i(kx_1 - \omega t + \theta_1)} + e^{i(kx_2 - \omega t + d\sin\theta k + \theta_2)}\right]$$

שמשמעותו למעשה שיש לנו כעת הפרש פאזה לפחות בין שני הקרנים וכל

פעם נקבל התאבכות בונה כאשר הקרנים יהיו בפאזה זהה ולכן נקבל

כאשר ההפרש ביניהם מכפלה של 2π ומכאן נוכל

להסיק שהזווית

עבורה $\theta = 0^\circ$

הערות הבודק

② כאשר נמקד את סיקוך נשים לב שיש לנו מכפלה קונבולוציה ם מכופה לשלושה פונקציות מוכרות/
תזכורת: $\cos(x_0 x) \overset{\mathcal{F}}{\leftrightarrow} \frac{1}{2}(\delta(x-x_0)+\delta(x+x_0))$. נשים לב שמתקיים rect בכיוון x קונבולוציה ם
נשתמש בתכונה שהוכחנו בהרצאה שאומרת לנו שאפשר לחשב את הפונקציה הזאת
תיבנות השוכחים שם המכפלה לא $x_0 \neq 2\pi$ ולכן שלא נקבל אי-רציפות. אם המכפלה כבר
מוגדרת היטב, אז נקבל שזו בדיוק הגדרה שקולה של המכפלה:

הדומה לי המכפלה כבר פונקציות הגדרנו לא שאנו -

$$f = \text{rect}\left(\frac{b}{x}\right) \cdot \cos(x_0 x)$$

עכשיו לא נרצה לחשב את * אלא נשתמש בתכונה של המכפלה:

$$\mathcal{F}\left\{\text{rect}\left(\frac{x}{a}\right)\cdot\cos(x_0 x)\right\} = \mathcal{F}(f) = \mathcal{F}\left\{\text{rect}\left(\frac{x}{b}\right)\right\} = \frac{\frac{2}{a}\cdot\sin(\frac{a}{2}\omega)}{\sqrt{2\pi}} = \mathcal{F}(\text{rect})(\omega)$$

$$\mathcal{F}(f) = \frac{1}{\sqrt{2\pi}}\left(\delta(\omega+x_0)+\delta(\omega-x_0)\right) * \mathcal{F}(\cos(x_0 x)) = \mathcal{F}(\text{rect})(\omega)$$

הערות הבודק

כאן נון שוויון ב-

$$\mathcal{F}(a \cdot b) = \mathcal{F}(a) * \mathcal{F}(b)$$

~~$k_x = \frac{x_1}{D}$~~

כאשר: k_x נקבע:

$$k_x = \frac{x_1}{D}$$

כלומר:

$$\mathcal{F}(f) = \left(\frac{|a|}{\sqrt{2\pi}} \operatorname{sinc}\left(\frac{a k x_1}{2D}\right)\right) * \left(\sqrt{\frac{\pi}{2}}\left(\delta\left(k_0 - \frac{x_1}{D}\right) + \delta\left(k_0 + \frac{x_1}{D}\right)\right)\right)$$

לדוגמה: ~~[illegible]~~ פורייה 3 גם כאן ניתן לראות שהאיבר $k_0 - \frac{x_1}{D}$ שלו

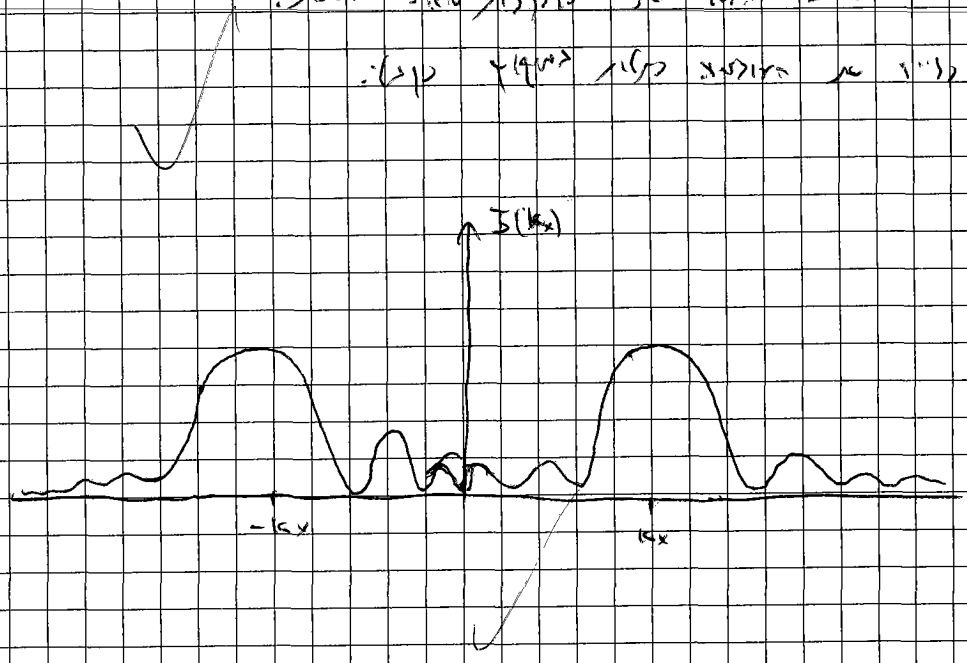
שווה לאפס, שזהו שווה לאפס כאשר k_0 שווה ל- $\frac{x_1}{D}$

ולכן הראשון שנגיע אליו הוא הראשון.

ואז נוכל לבדוק האם שפה זו עמדנו בקריטריון שלנו ומהם אלו הראשון, אם

כלומר את שנגיע הראשון שלו אחרי המרכז שווה

שלך ולזכור את הפונקציה כלומר האמיתי קלט:



הערות הבודק

הערות הבודק

$\omega = \frac{2\pi}{T}$:נתון

ω חוזר על עצמו כל T שניות. לאחר $\frac{T}{2}$ שניות נמצא הגוף בנקודה שבה הוא נמצא כעת, אך נעה בכיוון הפוך. לכן, בנקודה זו ω יהיה בעל אותו גודל אך סימן הפוך.

ω יהיה בעל אותו סימן כמו ω