1 - 29

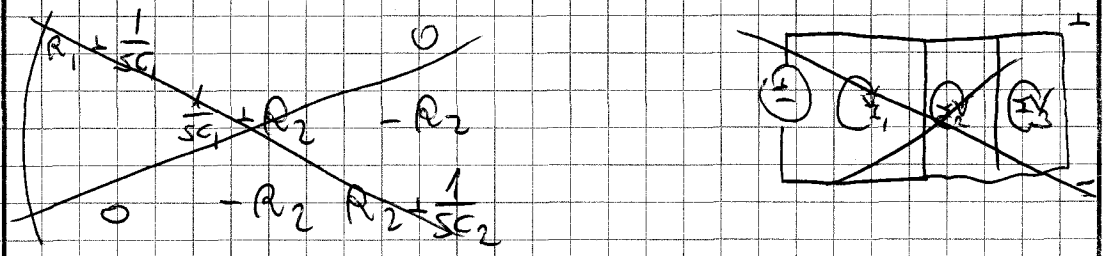
2 - 35

3 - 34

98

הערות הבודק

(2) נתון המעגל הבא במישור ה-s:



KVL במעגל:

$U_S = I_1 R_1 + V_0$

$V_0 = \frac{1}{sC_1} I_1 \Rightarrow I_1 = V_0 sC_1$

$V_0 = I_2 R_2 \Rightarrow I_2 = V_0/R_2$

$V_0 = I_3 \frac{1}{sC_2} \Rightarrow I_3 = V_0 sC_2$

KCL במעגל: $I = I_1 + I_2 + I_3 \Rightarrow I = (V_0 sC_1 + V_0/R_2 + V_0 sC_2)$

נציב במשוואת KVL הראשון

$$U_S = V_0 R_1 \left(sC_1 + \frac{1}{R_2} + sC_2\right) + V_0$$

נעביר למישור הזמן:

$$U_S = R_1 C_1 \dot{V}_0 + \frac{R_1}{R_2} V_0 + R_1 C_2 \dot{V}_0 + V_0$$

$$U_S = R_1(C_1 + C_2)\dot{V}_0 + \left(1 + \frac{R_1}{R_2}\right) V_0 \Rightarrow \frac{U_S}{R_1(C_1+C_2)} = \dot{V}_0 + \frac{R_1+R_2}{R_1 R_2 (C_1+C_2)} V_0$$

נציב את הנתונים:

$$\frac{U_S}{6} = \dot{V}_0 + \frac{6}{24} V_0 = \dot{V}_0 + \frac{1}{4} V_0$$

$$\dot{V}_0 + \frac{1}{4} V_0 = \frac{1}{6} u(t)$$ אזי

נפתור ב-RSZ: פתרון הומוגני מהצורה $Ce^{\lambda t}$ אזי

$$\lambda + \frac{1}{4} = 0 \Rightarrow \lambda = -\frac{1}{4}$$

פתרון פרטי מהצורה הקבוע:

$$\frac{C}{4} = \frac{1}{6} \Rightarrow C = \frac{2}{3}$$

$$V_0 = K e^{-\frac{t}{4}}$$

סה"כ

הערה: בשאלה זו ניתן לחשב את הפתרון הפרטי גם בעזרת משפט הערך הסופי: $\lim_{t\to\infty} V_0 = \lim_{s\to 0} sV_0$

הערות
הבודק

$$U_0 = Ke^{-t/4} + \frac{2}{3}$$

עכשיו נ.ת. ב-$t=0$ השוויון שנכון בכל מצב בפרט כשמציבים את הנקודה:

$$0 = K + \frac{2}{3} \quad \Longrightarrow \quad K = -\frac{2}{3}$$

סה"כ נוסחת $U(t)$ כך שהמרחב אינו ריק:

$$U_0 = \left(\frac{2}{3} - \frac{2}{3}e^{-t/4}\right)n(t)$$

ד. כשהמרחב ריק $n=0$ אבל R שונה מאפס:

$$U = \left(\frac{2}{3} - \frac{2}{3}e^{-t/4}\right)n(t) = U_0$$

ענין ש.ת. ב-$t=0$ השוויון שנכון בכל מצב בפרט כשמציבים את הנקודה:

$$0 = K + \frac{2}{3} \quad \Longrightarrow \quad K = -\frac{2}{3}$$

סה"כ נוסחת $U(t)$ כך שהמרחב אינו ריק:

$$U_0 = \left(\frac{2}{3} - \frac{2}{3}e^{-t/4}\right)n(t)$$

ה. כשהמרחב ריק $n=0$ אבל R שונה מאפס:

$$U = \left(\frac{2}{3} - \frac{2}{3}e^{-t/4}\right)n(t) = U_0$$

מהנתון: בשעה $t<0$ על האלקטרון פעל כוח חיצוני שהקנה לו תאוצה a_0 כלפי ימין:

$$\Lambda = \frac{dp}{dt}\Big|_{t=0^-} = 0 \quad \Longrightarrow \quad \Lambda = -\frac{2}{3}e^{-t/4} + \frac{1}{4}e^{-t/4}$$

$$\Lambda = \frac{dp}{dt}\Big|_{t=0^+} = \frac{1}{4} - \frac{9}{4}e^{-t/4} = ma_0$$

$$\Lambda = -\frac{2}{3}e^{-t/4} + \frac{1}{4}e^{-t/4}$$

$$\Lambda

הערות הבודק

$$V_{0zsR} = \left(\frac{1}{6}e^{-t/4}u(t)\right) * \left(e^{-t/4}u(t)\right) =$$

נשתמש בקונבולוציה כדי למצוא את

$$= \int_{-\infty}^{\infty} \left(\frac{1}{6}e^{-\frac{t-\tau}{4}}u(t-\tau)\right)\left(e^{-\frac{\tau}{4}}u(\tau)\right)d\tau =$$

$u(\tau)$ ו־$u(t-\tau)$ מכפלת שתי פונקציות מדרגה

$$= \int_0^t \frac{1}{6}e^{-\frac{t-\tau}{4}}e^{-\frac{\tau}{4}}d\tau = \frac{e^{-\frac{t}{4}}}{6}\int_0^t d\tau = \frac{te^{-\frac{t}{4}}}{6} = V_0$$

כאשר $t<0$ אין מקור ולכן $V_0=0$.

ב) עבור $t<0$ אין מקור ולכן $V_0=0$.

בשעה $t=0^+$ מתחבר R_2 למעגל ומשאיר את המקור V_0 כמקור המתח היחיד במעגל.

$$P_2 = V_0^2/R_2 = \left(\frac{te^{-t/4}}{6}\right)^2/R_2 \quad u(t) = \frac{t^2e^{-\frac{t}{2}}}{36R_2}u(t)$$

משוואת המעגל עבור הנגד R_1 היא:

$$V_{R_1} = V_0 \Longrightarrow V_{R_1} = V_0 - V_0 = e^{-\frac{1}{4}t}\left(1-\frac{t}{6}\right)u(t)$$

ההספק: $u(t)=u^2(t)$

$$P_1 = V_{R_1}^2/R_1 = \frac{1}{R_1}\left(e^{-\frac{1}{4}t}\left(1-\frac{t}{6}\right)\right)^2 u(t) = \frac{1}{R_1}\left(e^{-\frac{t}{2}}\left(1-\frac{t}{6}\right)^2\right)u(t)$$

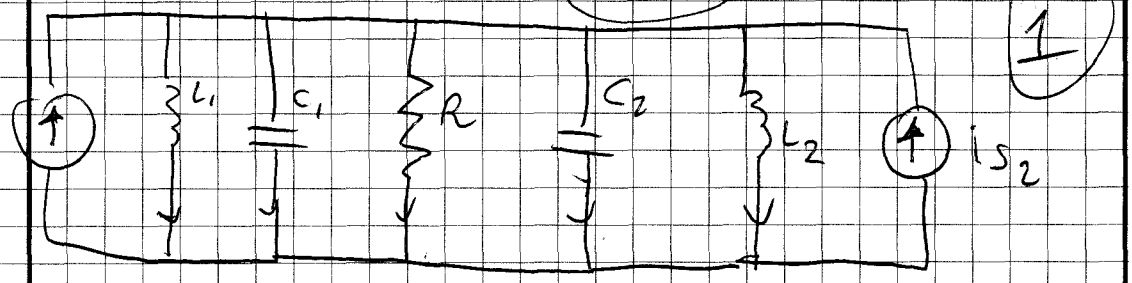
ההספק הכולל: 44 Watt


$$\frac{35}{35}$$

הערות הבודק

29/30

1





המשימה שלנו היא למצוא את V
ע"י שימוש בחוק הזרמים:

$$i_{s_1} + i_{s_2} = i_{L_1} + i_{C_1} + i_R + i_{C_2} + i_{L_2}$$

באמצעות כך שכל הרכיבים יבוטאו ע"י V:

$$I_{s_1} + I_{s_2} = \frac{V}{sL_1} + sC_1V + \frac{V}{R} + sC_2V + \frac{V}{sL_2}$$

$$V = sLI \Rightarrow I = \frac{V}{sL} \qquad V = RI \Rightarrow I = V/R$$

$$V = \frac{1}{sC}I \Rightarrow I = sCV$$

נציב:

$$I_{s_1} + I_{s_2} = V\left(\frac{1}{sL_1} + sC_1 + \frac{1}{R} + sC_2 + \frac{1}{sL_2}\right)$$

נכפול בכל האגפים ב-s ונעביר אגפים:

$$s(I_{s_1} + I_{s_2}) = V\left(\frac{1}{L_1} + \frac{1}{L_2} + \left(\frac{1}{R}\right)s + (C_1 + C_2)s^2\right)$$

נציב ערכים:

$$\dot{I}_{s_1} + \dot{I}_{s_2} = (C_1 + C_2)\ddot{V} + \frac{1}{R}\dot{V} + \left(\frac{1}{L_1} + \frac{1}{L_2}\right)V$$

$$\dot{I}_{s_1} + \dot{I}_{s_2} = \ddot{V} + \frac{1}{6}\dot{V} + \left(\frac{1}{12} + \frac{1}{9}\right)100 + \frac{1}{6}\dot{V} + \ddot{V} = 2\ddot{V} + \frac{1}{3}\dot{V} + 25V$$

✓

✓ המשוואה כעת:

$$2\ddot{V} + \frac{1}{3}\dot{V} + 25V = 2\delta(t)$$

נשים לב במשוואה הדיפרנציאלית בה התקבלנו שמקדם $\ddot{V}$ אינו 0 ולכן לפתרון הומוגני מ-0^- ל-0^+:

$$2 = \ddot{V}(0^+) + \frac{1}{3}\left(\dot{V}(0^+) - \dot{V}(0^-)\right) + 25\left(V(0^+) - V(0^-)\right)$$

$$\dot{V}(0^-) = V(0^-) = 0 \Rightarrow \dot{V}(0^+) = \ddot{V}(0^+) = 6$$

שאלת בונוס: מדוע $\dot{V}(0^-) = V(0^-) = 0$?

הערות הבודק

מהתנאים ההתחלתיים שאין מטענים ראשוניים

$$v(0^+)=0$$

$$\dot{v}(0^+)=2$$

נציב במשוואה המתאימה:

$$\ddot{v}+8\dot{v}+25v=0$$

אופייני:

$$s^2+8s+25=0$$

$$(s+4)^2+9=0$$

$$s+4=\pm 3i \quad \text{או} \quad s+4\pm 3i=0$$

$$s_{1,2}=-4\pm 3i$$

והפתרון הכללי הוא:

$$e^{-4t}(A\cos(3t)+B\sin(3t))u(t)$$

שימו לב לרזוננס – כי התדר הטבעי $\omega=3$ זהה לתדר המאולץ $f=\frac{3}{2\pi}$ Hz (בהנחה ש cos מאולץ רציונלי)

נציב תנאי:

$$v(0^+)=A=0 \quad e^0(A\cos(0)+B\sin(0))=0$$

$$\Rightarrow A=0$$

נשארנו עם הפתרון המקיים את התנאי ההתחלתי כי הוא שווה בדיוק 0 עבור הזמן שבו אין כאשר $t<0$

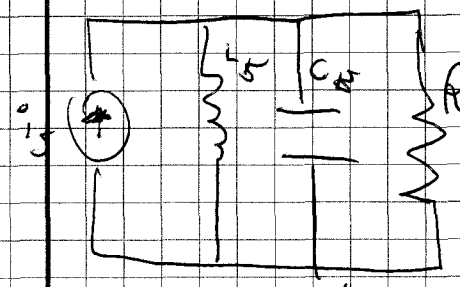
$$\dot{v}(t)=e^{-4t}u(t)(-4B\sin(3t)+3B\cos(3t))$$

$$\dot{v}(0)=2=3B \Rightarrow B=2/3$$

$$v_{zsr}=\frac{2}{3}e^{-4t}(\sin(3t))u(t)$$

✓

הערות הבודק

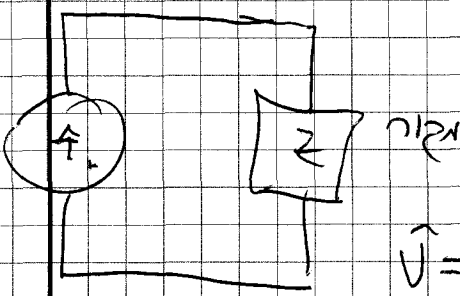


ג. נמדוך תחילה את האדמיטנס בענף 1:

$$Y = \frac{1}{R} + j\omega C_2 + \frac{1}{j\omega L_2} = \frac{1 + j\omega C_2 R + \frac{R}{j\omega L_2}}{R}$$

$$Z = \frac{R}{1 + j\omega C_2 R + \frac{R}{j\omega L_2}} = \frac{j\omega L_2 R}{j\omega L_2 - \omega^2 L_2 C_2 R + R}$$

עכשיו המעגל:



ניתן לראות כי:

$$\hat{V} = \hat{I}_0 Z$$

במצב תהודה מתרחש המקרה שבו Z הוא 0, לפחות באופן תאורטי. במציאות כאשר המעגל מחובר למקור מתח, הוא לא יתאפס לגמרי כאשר התנגדות הסליל אינה אפס. נמצא כאשר המכנה שווה לאפס:

$$\mathrm{Re}\{j\omega L_2 - \omega^2 L_2 C_2 R + R\} = 0 \Rightarrow \omega^2 L_2 C_2 R = R$$

$$\omega = \sqrt{\frac{1}{L_2 C_2}}$$

כעת נחשב את התדרים שמתאימים לכל אחד מהענפים:

$$f_1 = \frac{\omega_1}{2\pi} = 1.429 \frac{rad}{sec} \qquad \omega_1 = \sqrt{\frac{1}{L_1 C_1}} = 9.128 \frac{rad}{sec}$$

$$f_2 = \frac{\omega_2}{2\pi} = 0.513 \frac{rad}{sec} \qquad \omega_2 = \sqrt{\frac{1}{L_2 C_2}} = 3.227 \frac{rad}{sec}$$

✓

אבור המעגל שבו שני הענפים מחוברים במקביל, נחשב תחילה את ערכי RLC השקולים:

$$L_{tot} = \frac{1}{\frac{1}{L_1} + \frac{1}{L_2}} = \frac{1}{\frac{1}{2} + \frac{1}{\frac{1000}{120}}} = \frac{1}{\frac{1}{2} + \frac{120}{1000}} = \frac{1}{\frac{1}{2} + \frac{3}{25}} = \frac{1}{\frac{31}{50}} = \frac{50}{31} H$$

$$C_{tot} = C_1 + C_2 = 1F$$

$$R_{tot} = \frac{1}{\frac{1}{R_1} + \frac{1}{R_2}} = \frac{1}{\frac{1}{1} + \frac{1}{1}} = \frac{1}{2} \Omega$$

$$I_{tot} = I_{s_1} + I_{s_2} = 5A$$

(זוהי, אם כאלה, מהירות הסיבוב המקסימלית שבה יכול המנוע לפעול)

$$\omega = \sqrt{\frac{1}{L_{tot} C_{tot}}} = \sqrt{\frac{1}{\frac{50}{31}}} = 5 \frac{rad}{sec}$$

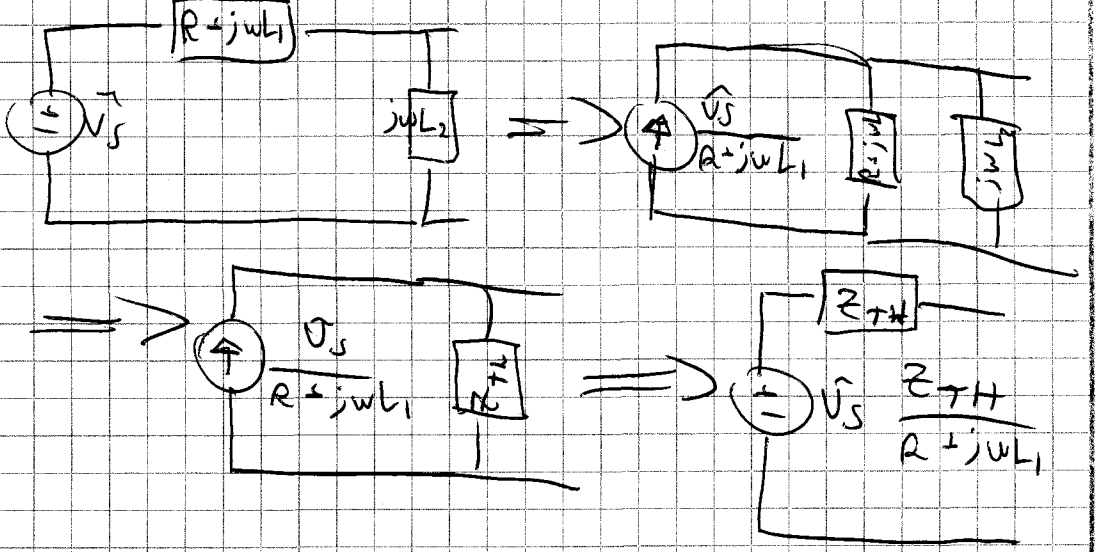
הערות הבודק

-1

הערות
הבודק

(3) סגור $M=0$ ולכן עכשיו את המעגל
מצא את R_{TH}. שחזר במלואה ואז
$$Z_{TH} = (R+j\omega L_1) \| (j\omega L_2)$$
$$= \frac{j\omega L_2 (R+j\omega L_1)}{R+j\omega(L_1+L_2)} = \frac{j\omega R L_2 - \omega^2 L_1 L_2}{R+j\omega(L_1+L_2)}$$

V_{oc} את חשב




לשם כך נשתמש בנוסחת המחלק המתח:

$$\hat{V}_{oc} = \hat{V}_S \frac{Z_{TH}}{R+j\omega L_1} = \hat{V}_S \frac{j\omega L_2}{R+j\omega(L_1+L_2)}$$


$$Z_{TH} = \frac{2\cdot 2(2+j2)}{2+2j(3)} = \frac{-2^2\cdot 2 + j2^3}{2+2j(3)} = 4\left(\frac{-1+j}{1+3j}\right) = \frac{4}{5}+\frac{8}{5}j$$

$$\hat{V}_{TH} = 1\cdot\frac{4j}{2+2j(3)} = \frac{2j}{1+3j} = \frac{2}{\sqrt{1+9}}\angle 90-\tan^{-1}\left(\frac{3}{1}\right)$$

$$= \frac{2}{\sqrt{10}}\angle 18.435^\circ \Rightarrow V_{TH} = \frac{2}{\sqrt{10}}\cos(2t+18.435^\circ)$$



הערות
הבודק



KVL:

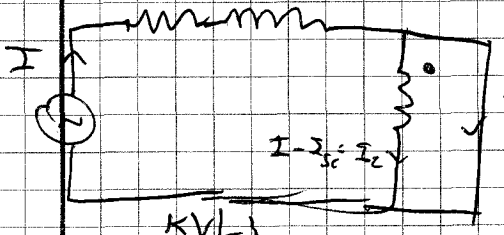
$$V_S = 2\hat{I} + j\omega L_1 \hat{I} + j\omega M \hat{I} + j\omega L_2 \hat{I} + j\omega M \hat{I}$$

$$\hat{V}_S = \hat{I}\left(2 + 2j + (5)\right) \Rightarrow \hat{I} = \frac{1}{2+10j}\hat{V}_S = \frac{1}{2+10j}$$

V_{oc} כלומר L_2 על פני

$$\hat{V}_{oc} = j\omega(L_2 + M)\hat{I} = \frac{6j}{2+10j} = \frac{3\sqrt{26}}{\sqrt{26}} \angle 11.3$$

$$v_{oc} = \frac{3\sqrt{26}}{\sqrt{26}}\cos(2t + 11.3^\circ)$$



KVL:

$$V_S = 2\hat{I} + 2j\hat{I} + 2j(\hat{I} - \hat{I}_{sc}) + 4j(\hat{I} - \hat{I}_{sc} - \hat{I}_2) + 2j\hat{I}$$

$$0 = 4j\hat{I}_2 + 2j\hat{I} \Rightarrow \hat{I} = -2\hat{I}_2$$

$$\hat{V}_S = -4\hat{I}_2 - 4\hat{I}_2 j + 2j\hat{I}_2 + 4j\hat{I}_2 - 4\hat{I}_2 j$$

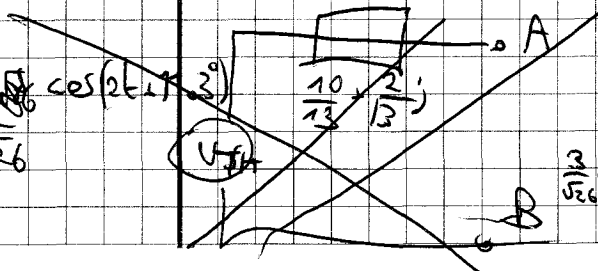
$$\hat{V}_S = \left(-4 + j(-4 - 2 + 4 - 4)\right)\hat{I}_2 = (-4 - 6j)\hat{I}_2$$

$$\hat{I}_2 = \frac{\hat{V}_S}{-4-6j}$$

$$\hat{I}_{sc} = \hat{I} - \hat{I}_2 = -3\hat{I}_2 = \frac{3}{4+2j}\hat{V}_S$$

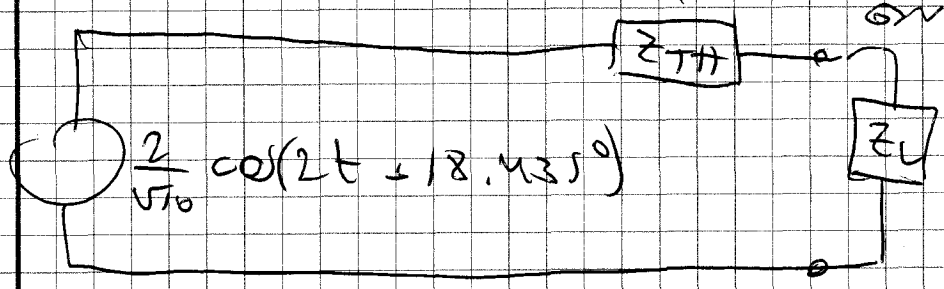
$$Z_{TH} = \frac{\hat{V}_{oc}}{\hat{I}_{sc}} = \frac{6j}{2+10j} + \frac{2j}{1} = \frac{4+2j}{2} + \frac{6j}{2+10j}$$

$$Z_{TH} = \frac{\hat{V}_{oc}}{\hat{I}_{sc}} = \frac{4+2j}{3} \left\| \frac{6j}{2+10j} \right. = \frac{9}{13} + \frac{7}{13}j$$



הערות הבודק

(32) באותו מעגל שבשאלה M=0 ובמקום המקורות



$$4\left(\frac{-1+j}{1+3j}\right)=4\left(\frac{(-1+j)(1-3j)}{1+9}\right)=\frac{4}{10}\left(-1+3j+j+3\right)$$
$$=\frac{4}{5}+\frac{8}{5}j$$

כדאי להוסיף שקיבלנו על המהירה

$$Z_{TH}^{*}=Z_L=\frac{4}{5}-\frac{8}{5}j$$

כדי שהעכבה תהיה טהורה

Z_L צריכה להיות $\frac{8}{5}\Omega$ ולכן $-\frac{1}{\omega C}=-\frac{8}{5}j$

$$\omega C=\frac{5}{8}\Longrightarrow C=\frac{5}{8\omega}=\frac{5}{16}\,F$$

הספק הנקבל על המהירה בעכבה שווה

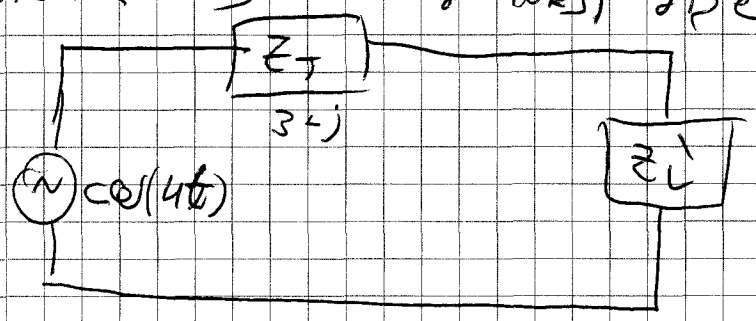
$$\frac{1}{8}\frac{|\tilde{V}_S|^2}{Re\{Z_{TH}\}}=\frac{1}{8}\frac{4}{10}\frac{5}{4}=\frac{1}{16}\,WATT$$

סה"כ

$$\frac{34}{35}$$

הערות
הבודק

ב. פאזה שקל (כאשר ω גדול כי הסרנו אינדוקטיביות)



$$Z'_L\left(\frac{1}{4}\right) = \frac{1}{9}Z_L = \frac{1}{9}$$

כיון שהמסלק לא מחובר למשרעת עשוית
ולא פוסקים שקט בחסם ומשרעת.
כדי שמקדם עוצמה:

$$Z_T = Z'^{*}_L = (-j\Omega)$$

המשרעת
הנה מסלק שעוצמה כדי (כמה)
דבר זה המסלק בחסם המקור) הזאת

$$\frac{1}{8}\left|\frac{1}{3}\right|^2 Z_{in} = \frac{1}{24} \text{ WATT}$$

מכיוון שמקדם $Z_L =$

$$Z_L = 9Z'_L = 9(-j\Omega) = -j9\Omega$$

נוכל לפרק כאשר ω גדול מספיק כדי
שנוכל להזניח $\frac{1}{j\omega C}$ ולקבל $Z_L = j\omega L$

$$L = \frac{9}{4} = 2.25\,H \quad \text{ולכן} \quad \omega L = 9$$

נוכל לפרק כאשר ω גדול מספיק כדי
שנוכל להזניח $j\omega L$ ולקבל $Z_L = \frac{1}{j\omega C}$

$$\omega C = \frac{1}{9} \Rightarrow C = \frac{1}{9\omega} = \frac{1}{36}\,F$$