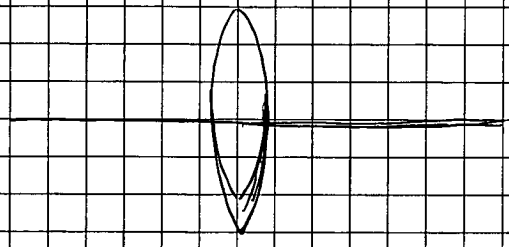
3'סר

1c שאלה 3 סעיף

(4)

1c

$d = 1cm$, $R_2 = -4cm$, $R_1 = 4cm$



מטריצת העתקה הרצויה:

$$\begin{pmatrix} 1 - \frac{d(n_2-n_1)}{n_2 R_1} & d\frac{n_1}{n_2} \\ \frac{n_1-n_2}{n_1 R_2}\left(-1+\frac{d(n_2-n_1)}{n_2 R_1}\right) + \frac{n_1-n_2}{n_1 R_1} & \frac{d(n_2-n_1)}{n_2 R_2} + 1 \end{pmatrix}$$

$$\begin{bmatrix} R_1 = 4cm \\ R_2 = -4cm \\ d = 1cm \\ n_2 = 1.5 \\ n_1 = 1 \end{bmatrix}$$

$$= \begin{pmatrix} \frac{11}{12} & \frac{2}{3} \\ -\frac{23}{96} & \frac{11}{12} \end{pmatrix} \rightarrow$$

מיקום מישור עקרוני:

$$V_p = \frac{1-\frac{11}{12}}{-\frac{23}{96}} = -\frac{8}{23}$$

מיקום מישור מוקדי:

$$U_p = \frac{1-\frac{11}{12}}{-\frac{23}{96}} = -\frac{8}{23}$$

$$\tilde{f} = \frac{96}{23}$$

$$\frac{1}{f} = \frac{1}{u-u_p} + \frac{1}{v-v_p}$$

המרחק מהמישור העקרוני

$u = 30cm$

$$\frac{23}{96} = \frac{1}{30+\frac{8}{23}} + \frac{1}{V+\frac{8}{23}} \rightarrow 0.206 = \frac{1}{V+\frac{8}{23}}$$

$$\frac{23}{96} = \frac{1}{30+\frac{8}{23}} = \frac{1}{V+\frac{8}{23}}$$

$$\boxed{V = 4.5_{cm}}$$

מיקום התמונה:

-1 נ'ד

הערות הבודק

טיוטה למבחן

$$1-\frac{d(n_2-n_1)}{n_2R_1}$$

$$\frac{d\,n_1}{n_2}$$

$$\left(\frac{n_1-n_2}{n_1R_2}\right)\left(1\right)\left(\frac{r}{d}\right)_2=D\left(\frac{r}{d}\right)_1$$

$d=1cm$

$R_1=4$

$R_2=-4$

$n_2=1.5$

$n_1=1$

$$D_{11}\quad 1-\frac{1(1.5-1)}{1.5\cdot 4}=\frac{11}{12}$$

$$P_{12}=1\cdot\frac{1}{1.5}=\frac{2}{3}$$

$$D_{21}=\frac{1-1.5}{1(-4)}\left(-1+\frac{1(1.5-1)}{1.5\cdot 1}\right)+\frac{1-1.5}{1.4}$$

$$0.125\left(-1+\frac{d(n_2-n_1)}{n_2R_1}\right)+\frac{n_1-n_2}{n_1R_1}=-\frac{23}{96}$$

$$D_{22}=\frac{11}{12}$$

$$\frac{1}{f}=\frac{1}{u}+\frac{1}{v}$$

$$\frac{1}{f}=\frac{1}{u-u_p}+\frac{1}{v-v_p}$$

$$\frac{1}{2}+\frac{1}{3}=\frac{1}{v}$$

נוסחת ההגדלה הכללית:

$$m_x=+\frac{v-v_p}{u-u_p}$$

$$=-\frac{4.5+\frac{8}{23}}{30+\frac{8}{23}}=-0.16$$

$$m_x=-\frac{v}{u}=-\frac{4}{3}$$

$$=-2$$

$f=2cm$

$u=3cm$

$v=6$

סעיף ד

ד- המשך: צומת הדמות: הנקודה $x_m = x_{min} = -0.16$ $D_{min} = \frac{V_p - V}{\mu - \mu_p}$

מאחר ומצומת הדמות: $2\,cm$. לכן צומת הדמות יהיה:

$$2 \cdot |x_m| = \boxed{0.32\,cm}$$


(נשים לב שמכיוון ש- x_m הקואורדינטה הפנימית).

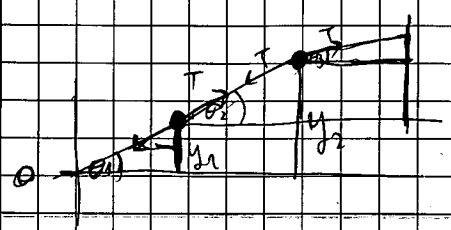
ג' הדמות ממנו מורכבת מקשקש וכן ניתוק בין הסגול לקו. לכן, אם הקשקש מאבד טורפני אז הקשקשת הנכונה עדיין שהדמות תהיה מורכבת מאותכי הגל (הדמות קו סגול), כיוון שהסגול נובע ברצף שהוא לפי דעתו הלאה.

ואז אין ניתוק ביניהם. (1)

הערות הבודק

טיוטה למבחן



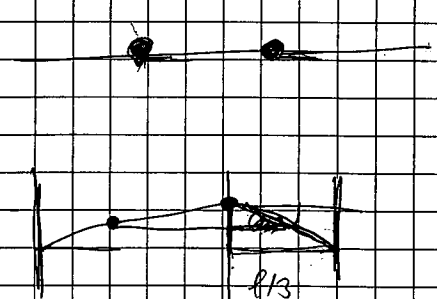


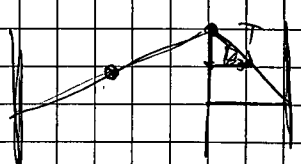
$$\sin\theta_1 \approx \tan\theta_1 \approx \frac{y_1}{l/3}$$

$$\sin\theta_2 \approx \tan\theta_2 \approx \frac{y_2 - y_1}{l/3}$$

$$m\ddot{y}_1 = -mg - T\sin\theta_1 + T\sin\theta_2$$

$$m\ddot{y}_2 = -T\sin\theta_2$$





$$T\sin\theta_2$$

$$\begin{pmatrix}\ddot{y}_1\\ \ddot{y}_2\end{pmatrix} = \begin{pmatrix}-6 & \frac{1}{3}\\ 3 & -6\end{pmatrix}\begin{pmatrix}y_1\\ y_2\end{pmatrix}$$

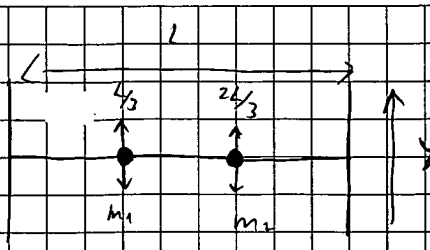
$$(-6-\lambda)^2 - 9 = 36 + 12\lambda + \lambda^2 - 9$$

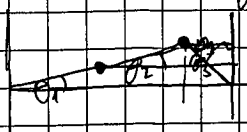
$$\lambda^2 + 12\lambda + 27$$

$$\lambda_{1,2} = \frac{-12 \pm \sqrt{144 - 4\cdot 27}}{2} = \frac{-12 \pm 6}{2}$$

$$\lambda_1 = \frac{-12+6}{2} = -3$$

$$\lambda_2 = \frac{-12-6}{2} = -9$$





$$\sin\theta_1 \approx \tan\theta_1 \approx \frac{y_1}{l/3} \qquad \sin\theta_3 \approx \tan\theta_3 \approx \frac{y_2}{l/3}$$

$$\sin\theta_2 \approx \tan\theta_2 \approx \frac{y_2 - y_1}{l/3}$$

$$m\ddot{y}_1 = -T\sin\theta_1 + T\sin\theta_2 \approx -T\cdot\frac{3y_1}{l} + T\cdot\frac{3(y_2-y_1)}{l}$$

$$m\ddot{y}_2 = -T\sin\theta_2 + T\sin\theta_3$$

$$= -T\cdot\frac{3(y_2-y_1)}{l} + T\cdot\frac{3y_2}{l}$$

$$m\ddot{y}_1 = \frac{-3T}{l}y_1 + \frac{3T}{l}y_2 - \frac{3T}{l}y_1 = \frac{-6T}{l}y_1 + \frac{3T}{l}y_2$$

$$\rightarrow \ddot{y}_1 = \frac{-6T}{ml}y_1 + \frac{3T}{ml}y_2$$

$$m\ddot{y}_2 = -\frac{3T}{l}y_2 + \frac{3T}{l}y_1 - \frac{3T}{l}y_2$$

$$\rightarrow \ddot{y}_2 = \frac{3T}{ml}y_1 - \frac{6T}{ml}y_2$$

$$\begin{pmatrix}\ddot{y}_1\\ \ddot{y}_2\end{pmatrix} = \begin{pmatrix}-6k & 3k\\ 3k & -6k\end{pmatrix}\begin{pmatrix}y_1\\ y_2\end{pmatrix} \qquad \left(\frac{T}{ml}=k\right)$$

הערות הבודק

טיוטה למבחן


דף טיוטה לא ייבדק

$$\begin{pmatrix} r \\ g \end{pmatrix}_2 = D \begin{pmatrix} r \\ g \end{pmatrix}_1$$

$$(6k+\lambda)^2$$

$$36k^2 + 12k\lambda + \lambda^2$$

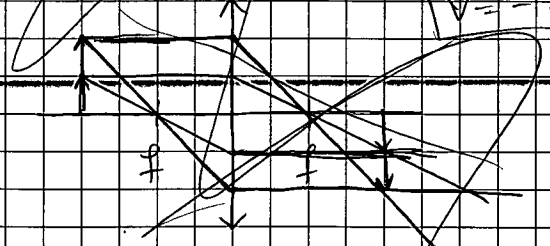
$$\begin{pmatrix} 2 \\ 0 \end{pmatrix}_2 = D \cdot \begin{pmatrix} r \\ g \end{pmatrix}_2 = D \cdot \begin{pmatrix} 2 \\ 0 \end{pmatrix}_1$$



$$\frac{1}{f} = \frac{1}{u} + \frac{1}{v} \rightarrow \frac{1}{2} - 1 = \frac{1}{v}$$

$$-\frac{1}{2} = \frac{1}{v}$$

$$\boxed{v = -2}$$



$f = 2$

$u = 4$

$H = 1$

$$\frac{1}{f} = \frac{1}{u} + \frac{1}{v}$$

$$\frac{1}{2} - \frac{1}{4} = \frac{1}{v}$$

$$\frac{1}{4} = \frac{1}{v}$$

$$\boxed{v = 4}$$

$$m_x = -\frac{4}{4} = -1$$

$$\det\begin{pmatrix} -6k-\lambda & 3k \\ 3k & -6k-\lambda \end{pmatrix} = (-6k-\lambda)^2 - 9k^2$$

$$= 36k^2 + 12k\lambda + \lambda^2 - 9k^2 = \lambda^2 + 12k\lambda + 27k^2 = 0$$

$$\lambda_{1,2} = \frac{-12k \pm \sqrt{144k^2 - 4\cdot 27k^2}}{2} = \frac{-12k \pm 6k}{2}$$

$$\lambda_1 = -9k \quad , \quad \lambda_2 = -3k$$

$$\tilde{A} = \begin{pmatrix} -9k & 0 \\ 0 & -3k \end{pmatrix}$$

$$\begin{pmatrix} -6k+9k & 3k \\ 3k & -6k+9k \end{pmatrix}\begin{pmatrix} a \\ b \end{pmatrix} = \begin{pmatrix} 0 \\ 0 \end{pmatrix}$$

$$3ka + 3kb = 0$$

$$a = -b$$

$$a = -b \rightarrow v_1 \parallel \begin{pmatrix} 1 \\ -1 \end{pmatrix}$$

$$\begin{pmatrix} -6k+3k & 3k \\ 3k & -6k+3k \end{pmatrix}\begin{pmatrix} a \\ b \end{pmatrix} = \begin{pmatrix} 0 \\ 0 \end{pmatrix}$$

$$-3ka + 3kb = 0$$

$$a = b \rightarrow v_2 \parallel \begin{pmatrix} 1 \\ 1 \end{pmatrix}$$

$$U = \begin{pmatrix} 1 & 1 \\ -1 & 1 \end{pmatrix}$$

הערות הבודק

טיוטה למבחן

$$\begin{pmatrix} r \\ s \end{pmatrix}_2 = D \cdot \begin{pmatrix} 2 \\ 0 \end{pmatrix}$$

$$D = \begin{pmatrix} 1 & v \\ 0 & 1 \end{pmatrix} \begin{pmatrix} \frac{11}{12} & \frac{2}{3} \\ \frac{-23}{96} & \frac{11}{12} \end{pmatrix} \begin{pmatrix} 1 & u \\ 0 & 1 \end{pmatrix}$$

$$= \begin{pmatrix} 1 & v \\ 0 & 1 \end{pmatrix} \begin{pmatrix} \frac{11}{12} & \frac{11u}{12} + \frac{2}{3} \\ \frac{-23}{96} & \frac{-23u}{96} + \frac{11}{12} \end{pmatrix}$$

$$\begin{pmatrix} D_{11} & D_{12} \\ D_{21} & D_{22} \end{pmatrix} \begin{pmatrix} r \\ s \end{pmatrix} = \begin{pmatrix} D_{11}r + D_{12}s \\ D_{21}r + D_{22}s \end{pmatrix}$$

לא לכתוב בשטח הזה

שאלה 2

נמצא את המשוואות התנועה של המערכת:

$$\begin{pmatrix} \ddot{z}_1 \\ \ddot{z}_2 \end{pmatrix} = \begin{pmatrix} -9k & 0 \\ 0 & -3k \end{pmatrix} \begin{pmatrix} z_1 \\ z_2 \end{pmatrix}$$

נגדיר כעת y ל- z הבאה:

$$\ddot{y} = A\ddot{z}$$

כלומר:

$$\begin{pmatrix} y_1 \\ y_2 \end{pmatrix} = \begin{pmatrix} 1 & 1 \\ -1 & 1 \end{pmatrix} \begin{pmatrix} z_1 \\ z_2 \end{pmatrix}$$

$$\rightarrow \quad y_1 = z_1 + z_2$$

$$y_2 = z_2 - z_1$$

$$\ddot{z}_1 = -9k z_1 = \frac{-9T}{ml} z_1 \rightarrow z_1 = A\cos(\omega_1 t + \varphi_1) \quad \left(\omega_1 = \sqrt{\frac{9T}{ml}}\right)$$

$$\ddot{z}_2 = -3k z_1 = \frac{-3T}{ml} z_1 \rightarrow z_2 = B\cos(\omega_2 t + \varphi_2) \quad \left(\omega_2 = \sqrt{\frac{3T}{ml}}\right)$$

נמצא כעת את המשוואות המקוריות של y_1, y_2 כך:

$$y_1 = z_1 + z_2 = A\cos(\omega_1 t + \varphi_1) + B\cos(\omega_2 t + \varphi_2)$$

$$y_2 = z_2 - z_1 = B\cos(\omega_2 t + \varphi_2) - A\cos(\omega_1 t + \varphi_1)$$

$$\omega_1 = \sqrt{\frac{9T}{ml}}$$

$$\omega_2 = \sqrt{\frac{3T}{ml}}$$

וזה בדיוק המבוקש ע"י המערכת הזו.

✓

סיימנו

הערות הבודק

3 אם היינו מאפשרים תנועה חופשית של המסה על כיוון הציר (מקביל למשטח)

6 אזי כל מסה $\vec{F}_{net}$ - כיוון מהירות התנועה, ימינה/שמאלה, למעלה/למטה)

4 שרטוט איכותי מסת - גרף $\vec{F}_{net}$.

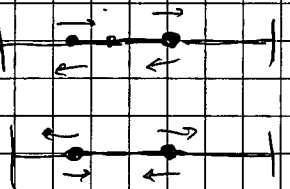
~~שלא~~ שלא נסמן על מסה אחת מהכוחות הללו: שקול הכוח $\vec{F}_{net}$ יצוי (מעלה/מטה)

(שקול של ~~שני~~ שני הכוחות הוא שווה לשקול הכוח)

3 אם היינו מאפשרים תנועה חופשית של המסה על כיוון הציר מקביל

6 ציפורי תנועה (יצוי כלפי החיצים לכל כיוון - ימינה/שמאלה, מעלה/מטה, כפי שהיה/התנועה ואחת יתכן גם הפוכות על כיוון).

לדוגמה:



יצוי התנועה ימינה אחת עם הכיוון ואחת נגד הכיוון

יצוי התנועה שמאלה אחת נגד הכיוון ואחת עם הכיוון

4 שרטוט איכותי מסת - גרף שיפוע תנועה. אך אם נסמן על מסה יתכן מהכוחות יהיה כלפי ימין ויתכן שיפוע תנועה (יצוי כלפי הכיוון ושיפוע יתכן שווה)

הערות הבודק

טיוטה למבחן

$$\omega^2(k) = \frac{4\beta}{m}\sin^2\left(\frac{ka}{2}\right) \quad (2)$$

מהירות הפאזה: $v_{ph} = \frac{\omega}{k}$

$$\omega(k) = 2\sqrt{\frac{\beta}{m}}\sin\left(\frac{ka}{2}\right)$$

$$v_{ph} = \frac{2}{k}\sqrt{\frac{\beta}{m}}\sin\left(\frac{ka}{2}\right)$$

מהירות החבורה: $v_g = \frac{\partial\omega}{\partial k}$

$$v_g = a\sqrt{\frac{\beta}{m}}\cos\left(\frac{ka}{2}\right)$$

שים לב שחבורה בלתי תלויה בקבוע קפיץ β ומהווה מאפיין של הגביש.

מאופיין, כי אלו המספרים היחידים שיש לנו לקבוע את התנהגות הגלים.

(3) מתקיים $\omega_2 > \omega_1$ אבל $v_2 < v_1$ לכן הפולס יתפרק

ω_1 ו ω_2 לפי הפולס יתפרק ω_2 כלומר, אם ω_1 גדולה ω_2

נתחיל בפאזות:

$$\psi_1 = A\cos(\omega_1 t + \varphi_1)$$

$$\psi_2 = B\cos(\omega_2 t)$$

$$\psi_1 + \psi_2 = A\cos(\omega_1 t) + B\cos(\omega_2 t)$$

$$\approx 2\cos\left(\underbrace{\frac{\omega_2+\omega_1}{2}}_{\omega_{avg}}t\right)\cdot\cos\left(\underbrace{\frac{\omega_2-\omega_1}{2}}_{\omega_A}t\right)$$

(מתקבל שהמספרים לא יתלכדו, הפולסים יתרחקו).

נלך עם מהירות v_g ונעלם

הערות הבודק

סה"כ

(2) סיכום: ניתן לראות כי עבור $ka \ll 1$ מתקיים $\sin\left(\frac{ka}{2}\right) \approx \frac{ka}{2}$, ולכן:

$$\omega(k) = 2\sqrt{\frac{\gamma}{m}}\sin\left(\frac{ka}{2}\right) \approx 2\sqrt{\frac{\gamma}{m}}\cdot\frac{ka}{2} = ka\sqrt{\frac{\gamma}{m}}$$

כלומר, ניתן להסיק כי עבור k קטן, מהירות הפאזה שווה למהירות החבורה:

$$\boxed{V_g = V_{ph} = a\sqrt{\frac{\gamma}{m}}}$$

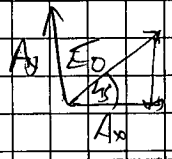
~~$V_{ph} = V_g$~~

כלומר, ניתן להסיק כי עבור k קטן, הפולסים יתפשטו ללא עיוות.

(3) $\omega = 2\sqrt{\frac{\gamma}{m}}$ מתקיים שלכל k ניתן להסיק כי הפולסים לא "יתפזרו" ויישארו בצורתם.

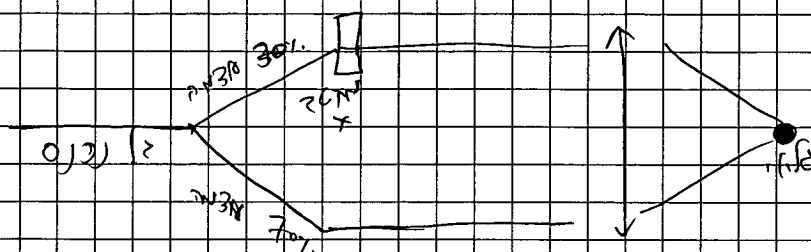
טיוטה למבחן


אין להשתמש בטיוטה



$$\frac{A_x}{E_0} = \cos 45$$

$$A_x = E_0 \cdot \cos 45$$





הערות הבודק

$I_{max} \rightarrow \cos(\Delta\varphi) = 1$

$I_{min} \rightarrow \cos(\Delta\varphi) = -1$

$$\frac{I_{max}}{I_{min}} = \frac{0.58E_0^2 + 0.216E_0^2}{0.58E_0^2 - 0.216E_0^2} = \frac{0.79}{0.37} = 2.13$$

$$\psi_1 = 0.3 \cdot \frac{1}{\sqrt{2}} E_0 e^{i(k_x x - \omega t)}$$

$$\psi_2 = 0.7 E_0 e^{i(kx - \omega t)}$$

$$I \propto (\psi_1 + \psi_2)(\psi_1 + \psi_2)^* = \psi_1\psi_1^* + \psi_1\psi_2^* + \psi_2\psi_1^* + \psi_2\psi_2^*$$

$$= \left(\frac{0.3}{\sqrt{2}}\right)^2 E_0^2 + \frac{0.3}{\sqrt{2}} \cdot 0.7 E_0^2 e^{i(x(k_x - k))} + \frac{0.3 \cdot 0.7}{\sqrt{2}} E_0^2 e^{i(x(k - k_x))} + 0.7^2 E_0^2$$

$$= 0.045E_0^2 + 0.3E_0^2 \cos(x(k_x - k)) + 0.49E_0^2$$

$$= \boxed{0.535E_0^2 + 0.3E_0^2 \cos(x(k_x - k))}$$

$I_{max} \rightarrow \cos(\Delta\varphi) = 1$

$I_{min} \rightarrow \cos(\Delta\varphi) = -1$

$$\frac{I_{max}}{I_{min}} = \frac{0.535E_0^2 + 0.3E_0^2}{0.535E_0^2 - 0.3E_0^2} = \frac{0.835}{0.235} = \boxed{3.55}$$

$\Delta\varphi = 0$

הערות הבודק