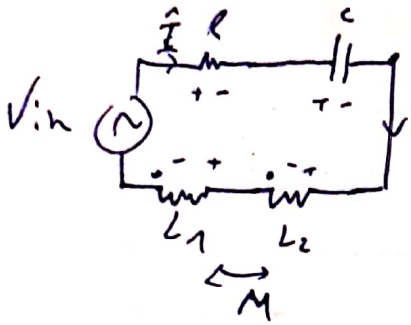
פתרון שאלה 3 – מבחן סוף סמסטר

שאלה 1

$I_{s.c.}$ נמצא ע"י שאלה 13



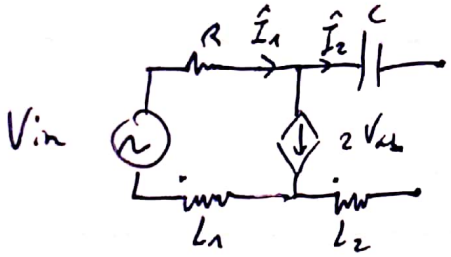
כאשר המעגל קצר $V_{ab}=0$ ולכן המקור התלוי מת.

שים לב שהשראות ההדדית M מגיעה מ־L_1 ו־L_2 ולכן

KVL: $j\omega L_1\hat{I} + j\omega M\hat{I} + j\omega L_2\hat{I} + j\omega M\hat{I} + \frac{1}{j\omega C}\hat{I} + \hat{I}R = \hat{V}_{in}$

$$\hat{I} = \hat{I}_{s.c.} = \frac{\hat{V}_{in}}{j\omega(L_1+L_2+2M)+R-j\frac{1}{\omega C}} = \frac{\hat{V}_{in}}{j\left(L_1+L_2+2M-\frac{1}{C}\right)+R}$$

$V_{o.c.}$ נמצא ע"י



$I_2 = 0 \Rightarrow \hat{I}_1 = 2\hat{V}_{ab}$

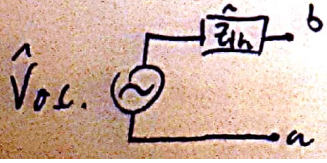
KVL outer loop:

$$j\omega L_1\hat{I}_1 + j\omega M\hat{I}_1 + V_{ab} + \hat{I}_1 R = \hat{V}_{in}$$

$$\hat{V}_{ab}\left(2j\omega L_1 + 2j\omega M + 2R + 1\right) = \hat{V}_{in}$$

$$\hat{V}_{ab} = \hat{V}_{o.c.} = \frac{\hat{V}_{in}}{2j\omega L_1 + 2j\omega M + 2R + 1} = \frac{\hat{V}_{in}}{2jL_1 + 2jM + 2R + 1}$$

$$\hat{Z}_{th} = \frac{\hat{V}_{o.c.}}{I_{s.c.}} = \frac{j\left(L_1+L_2+2M-\frac{1}{C}\right)+R}{2j(L_1+M)+2R+1}$$



Scanned by CamScanner

$Z_{th}^* = Z_L$ ... 5

$$Z_{th} = \frac{j(4+2+2-1)+2}{2j(4+1)+4+1} = \frac{2+7j}{5+10j} = \frac{(2+7j)(5-10j)}{25+100}$$

$$= \frac{1}{125}\cdot(10-20j+35j+70) = \frac{1}{125}(80+15j) = 0.64+0.12j$$

$$Z_L = Z_{th}^* = 0.64-0.12j$$

7.

$$P_{av} = \frac{1}{8}|\hat{V}_s|^2 \frac{1}{R_s}$$

$$\hat{V}_s = \hat{V}_{o.c.} = \frac{5}{5+10j} = \frac{1}{1+2j} = \frac{1-2j}{5} = 0.2-0.4j$$

$$P_{av} = \frac{1}{8}\left|\frac{1}{1+2j}\right|^2 \frac{1}{0.64} = 0.039 \text{ Watt}$$

$$\hat{I}_L = \frac{\hat{V}_{th}}{Z_L+Z_{th}} = \frac{\hat{V}_{th}}{Z_{th}+Z_{th}^*} = \frac{0.2-0.4j}{0.64-2}$$ — נוסחת מעגל

$$= 0.16-0.31j$$

$$P_{av} = \frac{1}{2}|\hat{I}_L|^2 Re\{Z_L\} = \frac{1}{2}|0.16-0.31j|^2 \cdot 0.64 = 0.039 \text{ Watt}$$

3. 4

$R = 0.64\,\Omega$ $\quad -j\frac{1}{\omega C} = -0.12j \Rightarrow C = \frac{1}{0.12} = 8.33\,F$

$= \frac{16}{25}\,\Omega$ $\quad = \frac{25}{3}\,F$

$\hat{V}_L$ ... 6

$$\hat{V}_L = \hat{V}_{th}\frac{Z_L}{Z_L+Z_{th}} = \frac{\hat{V}_{in}}{5+10j}\cdot\frac{0.64-0.12j}{2\cdot 0.64}$$

$$H(j\omega) = \frac{\hat{V}_L}{\hat{V}_{in}} = \frac{0.5-0.094j}{5+10j} = \frac{1}{125}(2.5-5j-0.47j-0.94)$$

$$= 0.013-0.044j = \frac{1}{80}-\frac{7}{160}j$$

Scanned by CamScanner

שאלה 2


א. מהו מקור מתח ומקור זרם:

מקור מתח אידיאלי שומר על מתח קבוע בין קצותיו:



$i = 0 \Rightarrow V = 0$

מקור זרם אידיאלי שומר על זרם קבוע דרכו:



$$i = I_s \Rightarrow V = iR = \boxed{I_s R}$$

ב.

$$P(t) = I^2 R = \boxed{I_s^2 R}$$

$$P_{av} = \frac{1}{T}\int_{-T/2}^{T/2} P(t)\,dt = I_s^2 R$$

הזרם קבוע בזמן.

ג. מקור מתח אידיאלי

$$V = V_s = V_0 \cos(\omega t)$$

$$I = I_s$$

$$P(t) = -I_s V_0 \cos(\omega t)$$

הספק רגעי:

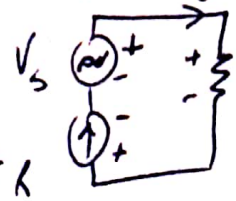
הספק ממוצע:

$$P_{av} = \frac{1}{T}\int_0^T I_s V_0 \cos(\omega t)\,dt = 0$$

$$I = I_s$$

ד.

לפי חוק מעגל נתון KVL



KVL: $V_1 - V_s + V_{I_s} = 0$

$$V_{I_s} = V_s - V = V_0 \cos\omega t - I_s R$$

$$P(t) = I_s\left(V_0 \cos(\omega t) - I_s R\right) = I_s V_0 \cos(\omega t) - I_s^2 R$$

$$P_{av} = -I_s^2 R$$

הספק ממוצע

Scanned by CamScanner

ب. ولتاژ دوسر خازن:

رزیستور معادل مدار:



$Z_L = j\omega L$

مقاومت معادل = Z_L موازی



مقاومت معادل موازی

$Z_L = j\omega L = 0$

$i = I_s \Rightarrow \boxed{V = I_s R}$

$$\boxed{V_{ab} = I_s R}$$

Scanned by CamScanner

KVL: $V_{C_2} + V_R - V_{C_1} = 0$

$V_{C_1} = V_{C_1}(0) + \frac{1}{C_1}\int_0^t -i\,dt$ $\quad V_{C_2} = V_{C_2}(0) + \frac{1}{C_1}\int_0^t i\,dt$ $\quad V_R = i \cdot R$

לפני סגירת המפסק ($t<0$):

$V_{C_1}(0^+) = V_{C_1}(0^-) = V_0$ $\quad V_{C_2}(0^+) = V_{C_1}(0^-) = 0$

$$V_0 + \frac{1}{C_1}\int_0^t i\,dt + iR + \frac{1}{C_2}\int_0^t i\,dt + iR = 0$$

$$V_0 + \left(\frac{1}{C_1} + \frac{1}{C_2}\right)\int_0^t i\,dt + iR = 0$$

גזירה:

$$\left(\frac{1}{C_1} + \frac{1}{C_2}\right) i + R\frac{di}{dt} = 0 \Rightarrow \boxed{\frac{di}{dt} + \frac{1}{R}\left(\frac{1}{C_1} + \frac{1}{C_2}\right) i = 0}$$

$$i(t) = A e^{-\left(\frac{1}{C_1} + \frac{1}{C_2}\right)\frac{t}{R}} = A e^{-\frac{2t}{RC}} \Rightarrow$$

הפתרון הוא:

$V_{C_2}(0^+) + V_R(0^+) - V_{C_1}(0^-) = 0$

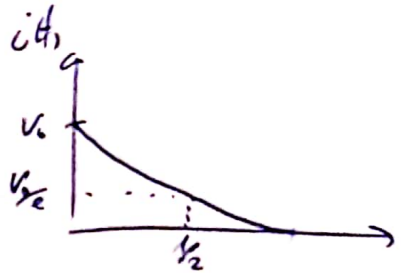
$i(0^+) R = V_{C_1 0^+}$

$i(0^+) = \frac{V_0}{R}$

$i(0^+) = A = \frac{V_0}{R} \Rightarrow \boxed{i(t) = \frac{V_0}{R} e^{-\frac{2t}{RC}}} = V_0 e^{-2t}$

עבור $R=1\Omega, C=1F$

Scanned by CamScanner



$V_0 e^{-2t} = V_0 e^{-1}$ $\frac{1}{e}$ של ערך

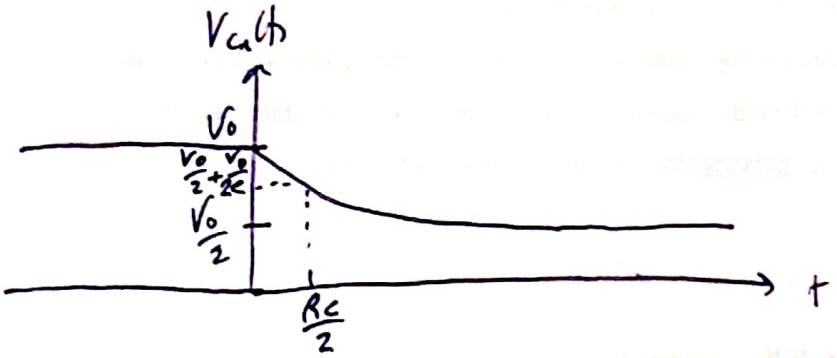
$t_{1/2} = \tau = \frac{1}{\alpha} = \frac{1}{2}$ sec

2.

$$V_{C_1}(t) = V_0 + \frac{1}{C}\int_0^t (-i)\,dt \qquad C_1 = C$$

$$= V_0 + \frac{1}{C}\int_0^t -\frac{V_0}{R} e^{-\frac{2t}{RC}} = V_0 + \frac{V_0}{2C}\left[+\frac{1}{2}RC\, e^{-\frac{2t}{RC}}\right]_0^t$$

$$= V_0 + \frac{V_0}{2}\left[e^{-\frac{2t}{RC}} - 1\right] \qquad t>0$$



$e^{-\frac{2t}{RC}} = e^{-1}$ $\frac{1}{e}$ של ערך

$\Rightarrow t_{1/e} = \frac{RC}{2}$

$V_{C_1}(t) = \frac{V_0}{2}$ $t \to \infty$ ולכן

מלוא האנרגיה שנשמרת בקבל תתפזר בנגד

$$P_R = i^2 \cdot R = \frac{V_0^2}{R^2} e^{-\frac{4t}{RC}} R = \frac{V_0^2}{R} e^{-\frac{4t}{RC}}$$

$$W_R = \frac{V_0^2}{R}\int_0^t e^{-\frac{4t}{RC}} = -\frac{V_0^2}{R}\frac{RC}{4}\left[e^{-\frac{4t}{RC}} - 1\right] = \frac{V_0^2 C}{4}\left[1 - e^{-\frac{4t}{RC}}\right]$$

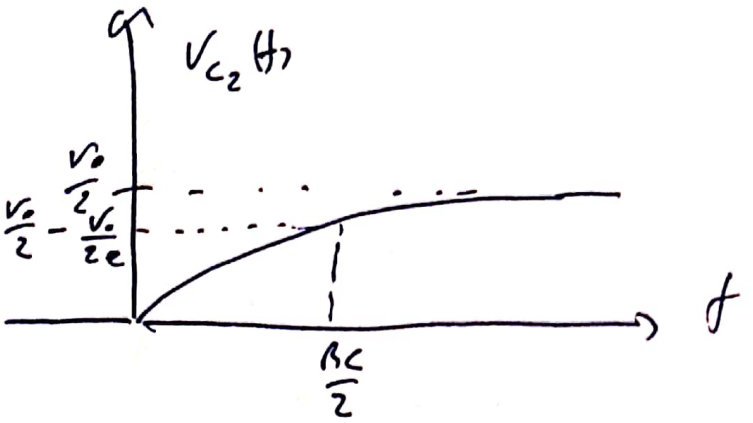
$$W_R(t\to\infty) = \frac{V_0^2 C}{4}$$

Scanned by CamScanner

3.

$$V_{C_2} = \frac{1}{C}\int_0^t i\,dt$$

$$= \frac{V_0}{2}\left[1 - e^{-\frac{2t}{RC}}\right]$$



4.

$$V_{C_2}(t \to \infty) = \frac{V_0}{2}$$

כשהקבלים טעונים במלואם וקוטם שווה ל $t \to \infty$

$$W_{C_1,C_2} = \frac{1}{2}C V_C^2(t) = C\frac{V_0^2}{8}$$

כאשר הקבלים טעונים במלואם ומתח שווה ל $t = 0$

$$W_{C_1} = C\frac{V_0^2}{2}$$

$$C\frac{V_0^2}{2} = \underbrace{C\frac{V_0^2}{8} + C\frac{V_0^2}{8}}_{\text{אנרגיה שווה בקבלים}} + \underbrace{C\frac{V_0^2}{4}}_{\text{אנרגיה שנפלטה למעגל כחום}}$$

אנרגיה בהתחלה בקבלים

Scanned by CamScanner