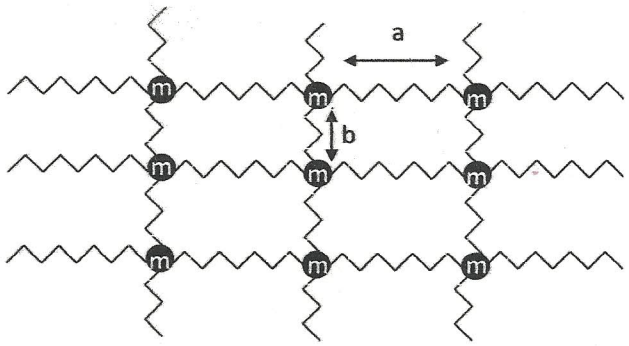
83325 בחינת סוף קורס מועד ב
סמסטר א (תשע"ה) 2015
מרצה: יוסי פלטיאל
מתרגלת: מורן בן נון

ענה על 4 השאלות הבאות
3 וחצי שעות של בחינה
השימוש בדפי נוסחאות (עד 6 עמודים) מותר ויש להגישם בסוף הבחינה.

שאלה 1.

נתונה מערכת **אינסופית** בעלת אינסוף מסות m וקפיצים המרחק האופקי בין כל שתי מסות הוא a והמרחק האנכי b כמובא באיור.

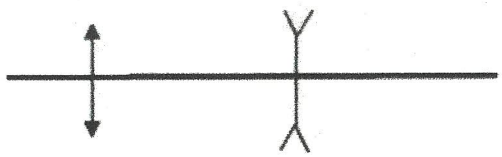
א. כתוב את משוואות התנועה. הנח שהתנועה האופקית והאנכית בלתי תלויות זו בזו. (7 נקודות).
ב. חשב את יחסי הדיספרסיה הנח תנודות קטנות. (6 נקודות).
ג. פולס מקוטב ליניארי בזווית של 45 ממקדם במערכת זו. מה יקרה לצורת הפולס כעבור מרחק d במערכת. (6 נקודות).
ד. האם ניתן לשנות את קיטוב הפולס במוצא מהמערכת? אם לא, הסבר מדוע. אם כן הסבר לאילו קיטובים ובמה הדבר תלוי. (6 נקודות).



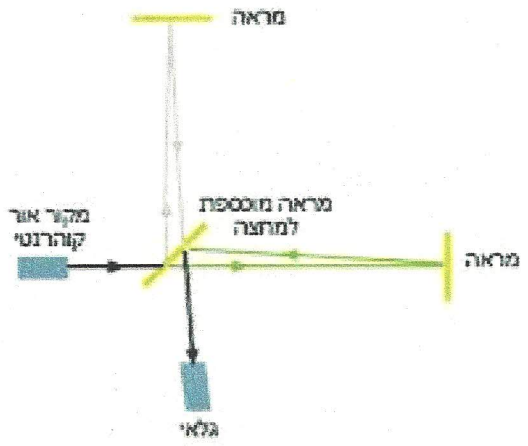
שאלה 2.

1) נתונה מערכת של שתי עדשות דקות מרוחקות זו מזו ב 10 ס"מ. אורכי המוקד הם $|f1|=5cm$, $|f2|=3cm$ כאשר עדשה אחת היא מרכזת והשניה מפזרת

א. חשב את מטריצת ההעברה של המערכת. מהו התנאי לקבלת דמות מדוייקת בקירוב הפרהאקסיאלי? הסבר (8 נקודות).
ב. מהו מרחק המוקד והיכן ממוקמים הצירים הראשיים. האם המערכת מפזרת או מרכזת? (7 נקודות).
ג. היכן תתקבל דמות של עצם הממוקם במרחק 20 ס"מ משמאל לעדשה הראשונה? האם הדמות מוקטנת/מוגדלת, הפוכה/ישרה, ממשית/מדומה? (5 נקודות).
ד. כיצד תשתנה תשובתך אם כעת נציב את המערכת במים במקום באוויר. נמק (5 נקודות).



שאלה 3.



אינטרפומטר מייקלסון בעל שתי זרועות מכוון כך שנקבל מאקסימום עוצמה בגלאי.

א. מה המרחק בין שתי הזרועות? (5 נקודות)

ב. לפני המראה הימנית נכניס גוש זכוכית מלבני בעל אינדקס שבירה 1.5 ועובי d מה העוצמה בגלאי עכשיו ? (10 נקודות).

ג. באיזה תנאי נקבל מאקסימום עוצמה ומה התנאי למינימום עוצמה בגלאי? מהן העוצמות הנ"ל יחסית להתחלה? (10 נקודות).

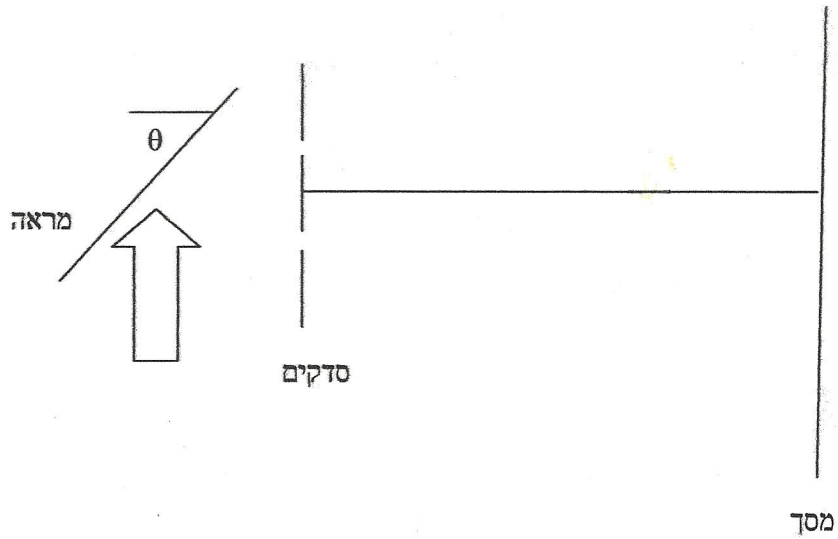
שאלה 4.

באויר הפתוח חזית גל מישורית קוהרנטית מגיעה למראה המוטה בזוית θ של 45 מעלות לשני סדקים קטנים המורחקים במרחק d בינהם. (ראה איור)

א. תאר בקצרה כיצד תראה התפלגות העוצמה של האור על פני מסך קרוב והמרוחק מהסדקים? (ציין את ההנחות שהנחת) . (9 נקודות)

ב. כעט נטה את המראה לזוית בזוית θ של 30 מעלות. כיצד תשתנה התמונה, הנח שהמרחק למסך L? . (8 נקודות)

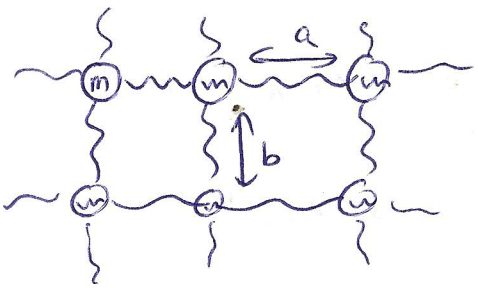
ג. עבור θ של 45 מעלות נחליף את הסדקים במפתח ברוחב d מכוסה בשקופית בעלת פונ' העברה $t(x)= \cos(k0\ x)$. כיצד תשתנה תבנית ההתאבכות על המסך? (8 נקודות)



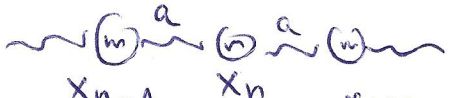
בהצלחה מורן ויוסי

שאלה 1

א.



נסתכל על המערכת שבין הקירות האנכיים בלבד:

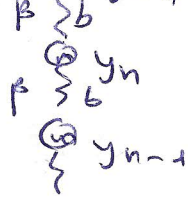


נסמן ב- x : הקפיץ α

משוואת התנועה:

$$\text{I}\quad m\frac{d^2x_n}{dt^2} = \alpha(x_{n+1}-x_n) - \alpha(x_n - x_{n-1})$$

הכוח הפועל מכיוון הקפיץ α משמאל שואף לאזן את הכוח הפועל מכיוון הקפיץ מימין



נסמן ב- y :

מכאן ש- $n-1$ יש מרחק שווה מהקפיץ השווה β.

$$\text{II}\quad m\frac{d^2y_n}{dt^2} = \beta(y_{n+1}-y_n) - \beta(y_n - y_{n-1})$$

מהצורה המוכרת של המשוואות הדיפרנציאליות נצפה לפתרון אלמנטרי $x_n = Ae^{i(\omega t - kx_n + \phi)}$ ונסמן את y_n שווה.

נסמן $x = na$ כאשר

$$x_{n+1} = Ae^{i(\omega t+\phi)}e^{ik(n+1)a}$$

$$= Ae^{i(\omega t+\phi)}e^{ikna}e^{ika} = x_n e^{ika}$$

לכן

בצורה דומה

$$x_{n-1} = x_n e^{-ika}$$

$$\frac{d^2x_n}{dt^2} \rightarrow \dot{x}_n = i\omega x_n \qquad \ddot{x}_n = -\omega^2 x_n$$

(2)

$$-m\omega^2 x_n = \alpha x_{n+1} + \alpha x_{n-1} - 2\alpha x_n$$

$$-m\omega^2 \cancel{x_n} = \alpha \cancel{x_n} e^{ika} + \alpha \cancel{x_n} e^{-ika} - 2\alpha \cancel{x_n} \quad / \cdot -m$$

$$\omega^2 = \frac{\alpha}{m} e^{ika} - \frac{\alpha}{m} e^{-ika} + \frac{2\alpha}{m}$$

$$\omega^2 = \frac{\alpha}{m}\left(\underbrace{-e^{ika} - e^{-ika}}_{-2\cos ka}\right) + 2\frac{\alpha}{m}$$

$$\omega^2 = \frac{\alpha}{m}(2 - 2\cos ka) = \frac{2\alpha}{m}(1 - \cos ka)$$

$$1 - \cos ka \rightarrow 2\sin^2\left(\frac{ka}{2}\right)$$

נקבל את התדר עבור תנודות בכיוון x:

$$\boxed{\omega_x^2 = \frac{4\alpha}{m}\sin^2\left(\frac{ka}{2}\right)}$$

כמו כן ישנם תנודות בכיוון x.

במידה ונחליף כעת את $\alpha \to \beta$ ואת $a \to b$ נקבל

$$\omega_y^2 = \frac{4\beta}{m}\sin^2\left(\frac{kb}{2}\right)$$

קיבלנו ישנם תנודות שונות בכל אחד מהכיוונים.

ואם התנודות שונות $\Leftarrow$ אז גם התדרים שונים $\Leftarrow$ אם התדרים לא שווים בכל אחד מהכיוונים

ניתן לתאר את התנועה כשילוב של שתי התנודות הללו.

(3)

בהתחה תנודת קטנה:

$x \sim x_0 \sin$

ולכן

$$\omega_x^2 = \frac{2\alpha}{m}\left(\frac{k_x a}{2}\right)^2$$

לעומת

$$k_x \propto \omega_x \rightarrow \omega_x = \frac{a}{2}\sqrt{\frac{2\alpha}{m}}\, k_x$$

$$\omega_y^2 = \frac{2\beta}{m}\left(\frac{k_y a}{2}\right)^2$$

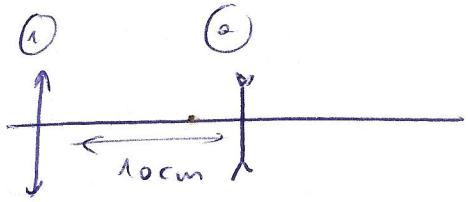
לעומת

$$k_y \propto \omega_y \qquad \omega_y = \frac{a}{2}\sqrt{\frac{2\beta}{m}}\, k_y$$

ג. כדי שהכדור יעשה תנודות קטנות בלבד סביב נקודת שיווי המשקל, צריך שהפוטנציאל יהיה בעל מינימום בנקודה זו. כלומר, אם נתקרב אל נקודת שיווי המשקל מכל כיוון, הכוח הפועל על הכדור צריך להיות בכיוון המקום שבו נמצאת נקודת שיווי המשקל. כלומר, הכוח הפועל על הכדור בכל נקודה בסביבת נקודת שיווי המשקל צריך להיות בכיוון המקום שבו נמצאת נקודת שיווי המשקל.

(4)

שאלה 2:



$|f_1| = 5cm$ $\quad$ $|f_2| = 3cm$

$f_1 = 5cm$ מכיוון $\quad$ $f_2 = -3cm$ מכיוון

א. מצא את המטריצה של המערכת:

$$A = M_{f_2} M_{d=10} M_{f_1}$$

$$A = \begin{pmatrix} 1 & 0 \\ -\frac{1}{f_2} & 1 \end{pmatrix}\begin{pmatrix} 1 & d \\ 0 & 1 \end{pmatrix}\begin{pmatrix} 1 & 0 \\ -\frac{1}{f_1} & 1 \end{pmatrix}$$

$$A = \begin{pmatrix} 1 & 0 \\ -\frac{1}{f_2} & 1 \end{pmatrix}\begin{pmatrix} 1-\frac{d}{f_1} & d \\ -\frac{1}{f_1} & 1 \end{pmatrix} =$$

$$= \begin{pmatrix} 1-\frac{d}{f_1} & d \\ -\frac{1}{f_2}+\frac{d}{f_1 f_2}-\frac{1}{f_1} & 1+\frac{d}{f_2} \end{pmatrix} = \begin{pmatrix} 1-\frac{10}{5} & 10 \\ -\frac{1}{-3}+\frac{10}{-3\cdot(5)}-\frac{1}{5} & 1+\frac{-10}{-3} \end{pmatrix} = \begin{pmatrix} -1 & 10 \\ -8/15 & 4.33 \end{pmatrix}$$

על מנת לקבל טרנספורמציה יחידה מאונך אנו צריכים

על המערכת הבאה:

$$D = \begin{pmatrix} 1 & 4 \\ 0 & 1 \end{pmatrix} A \begin{pmatrix} 1 & 4 \\ 0 & 1 \end{pmatrix}$$

נדרוש $D_{12} = 0$

משוואה שתדע: לא אומר שאנו מעוניינים

כיוון הקרן הנע מנקודת המקור, ועדיין

נקבל הנע מנקודת מקור 2

מיקום ו מאונך אופטי בציור א.

(5) נקבל $D_{1,2}$ של המערכת הנתונה אומרת ש

$$\frac{1}{f} = \frac{1}{v_{תמונה}} + \frac{1}{v_{מקור}}$$

שמהווה המעבר לקבוע – כאשר מקדמי הפרופורציונליות

(כאן מקור $\to$ תמונה)

ב. מהי המיקום ההיפרפוקלי:

$$\tilde{f} = -\frac{1}{C} = +\frac{15}{8} = 1.875\,cm$$

מיקום המישור הראשי ומישור המוקד – הינה

מטריצה מטריצת.

$$A = \begin{pmatrix} -1 & 10 \\ -\frac{8}{15} & 4\frac{1}{3} \end{pmatrix}$$

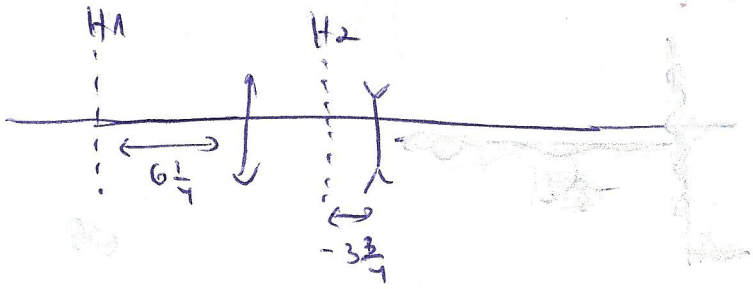
מיקום הנקודות המרחיקים:

מיקום H_2: $U_p = \frac{1-a}{C} = \frac{1+1}{-8/15}$

מיקום H_1: $U_p = \frac{1-d}{C} = \frac{1-4\frac{1}{3}}{-8/15}$

$U_p = -3\frac{3}{4}\,cm$

$U_p = 6\frac{1}{4}\,cm$



ג. לפי נוסחת ההדמיה

$$\frac{1}{\tilde{f}} = \frac{1}{u-u_p} + \frac{1}{v-v_p}$$

$u = 20\,cm$

$$\frac{1}{15/8} = \frac{1}{20 - 6\frac{1}{4}} + \frac{1}{v + 3\frac{3}{4}}$$

$$\frac{8}{15} = \frac{1}{13\frac{3}{4}} + \frac{1}{v + 3\frac{3}{4}}$$

$$\frac{8}{15} = \frac{4}{55} + \frac{1}{v+3\frac{3}{4}} \to \frac{76}{165} = \frac{1}{v+3\frac{3}{4}}$$

6

$165 = 76V + 285$

$-120 = 70V$

$V = -1.58$ cm

$V < 0$ ולכן הדמות

$m_x = -\frac{V}{U} = -\frac{(-1.58)}{20}$ הגדלה קווי

$|m_x| < 1$

ולכן הדמות מוקטנת

$m_x \geq 0$

ישרה

ולכן הדמות

מדומה

$m_x \geq 0$, מוקטנת $|m_x| < 1$, $A < 0$ סיכום הדמות

ג. אין נקודה שבה המאזניים יהיו במאזן, אבל אם נמקם את המראה במרחק מתאים מהעדשה נוכל לגרום לכך שהדמות שתיווצר על המראה תהיה במרחק המתאים כך שהאור יחזור בדיוק דרך העדשה ויווצר דמות ממשית על העדשה. כך המאזניים יהיו במאזן.

$\frac{1}{f} = (n-1)\left[\frac{1}{R_1} - \frac{1}{R_2}\right]$

כיוון שכוסו ב מים הדמות חזרה

כאשר: $\frac{1}{f} = (n_2 - n_1)\left[\frac{1}{R_1} - \frac{1}{R_2}\right]$

$n_1 = 1.3$, $n_2 = 1.5$

המאזניים יהיו במאזן.

ד. הדמות שנוצרה על המראה תהיה ממשית.

שאלה 3:

א. אורך הפרומטר מוגדר:

$$\Delta\varphi = \frac{2\pi}{\lambda}\cdot 2(L_2 - L_1)$$

$$I \propto \cos^2 \Delta\varphi$$

על מנת שתתקבל מקסימום עזמה: הפרש

הפרש ב

כדי הפרש

המסלולאורך

מסלול

שווה

$$\Delta\varphi = 0$$ ← מתי זה

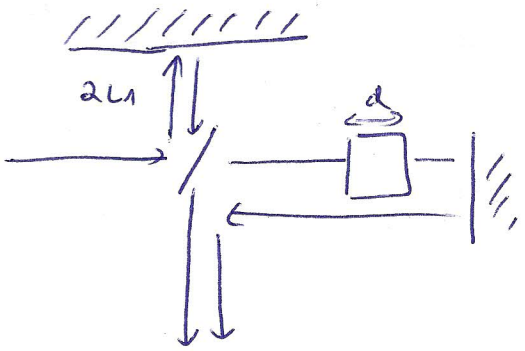
$$m = 1$$ אזי

$$\frac{2\pi}{\lambda} 2(L_2 - L_1) = \pi$$

$$\Delta L = 1 \cdot \frac{\lambda}{4} \longrightarrow \boxed{\Delta L = \frac{1}{4}\lambda}$$

ב. מעניין אותנו המרחק הזעיר ביותר שבו נקבל מקסימום $m=1$

עבור d. מה הוא המרחק המינימלי?



נסמן את הגלים:

$$\varphi_1 = k \cdot 2L_1$$

$$\varphi_2 = k \cdot 2L_2$$

לאחר הגלים הגלים: $\varphi_2 = k(2L_2 - 2d) + k2nd$

נקבל: $\Delta\varphi = k \cdot 2L_1 - k(2L_2 - 2d) - kn2d$

$$= k2\Delta L + 2kd - 2knd = 2k(\Delta L + d - nd)$$

(7)

הפתרון מתחלק ל:

$$\Psi = \Psi_1 + \Psi_2$$

$$I \propto |\Psi|^2$$

$$\Psi_1 = A_1 e^{j(2kL_1 - \omega t)}$$

$$\Psi_2 = A_2 e^{j(2kL_2 - 2kd + 2knd - \omega t)}$$

$$\Psi = \Psi_1 + \Psi_2 = e^{j(\underbrace{2kL_1 - \omega t}_{\equiv \beta})} \left[A_1 + A_2 e^{j(\underbrace{2k(L_2 - L_1) + 2k(nd - d)}_{\Delta\varphi})} \right]$$

$$\Psi = e^{j\beta} \left[A_1 + A_2 e^{j\Delta\varphi} \right]$$

$$\Psi^* = e^{-j\beta} \left[A_1 + A_e e^{-j\Delta\varphi} \right]$$

$$I \propto \Psi \cdot \Psi^* = e^{j\beta} \left[A_1 + A_2 e^{j\Delta\varphi} \right] \cdot e^{-j\beta} \left[A_1 + A_2 e^{-j\Delta\varphi} \right]$$

$$= A_1^2 + A_1 A_2 e^{-j\Delta\varphi} + A_2 A_1 e^{j\Delta\varphi} + A_2^2 =$$

$$= A_1^2 + A_2^2 + 2A_1 A_2 \underbrace{\cos\Delta\varphi}_{\text{ניקח את האיבר}}$$

$$\Delta\varphi = 2k(\Delta L + d - nd)$$

כאשר

$\Delta\varphi = 0 + 2\pi m$ ← $\cos\Delta\varphi = 1$ אזי: מקסימום

$\Delta\varphi = \pi + 2\pi m$ ← $\cos\Delta\varphi = -1$ אזי: מינימום

נחשב כעת את A_0 (המשדר):

$A_1 = \frac{1}{2} \cdot A_0$ ← B.S

$A_2 = \frac{1}{2} A_0 \cdot t_1^2 \cdot t_2^2$ אחרי

$t_1 = \frac{2}{n+1}$ (מעבר מ-n_1 ל-n) $t_2 = \frac{2n}{n+1}$

מינימום שמתקבל מינימום עבור

(a)

$$I_{max} = \left(\frac{1}{2}A_0\right)^2 + \left(\frac{1}{2}A_0 t_1^2 t_2^2\right)^2 + 2\left(\frac{1}{2}A_0\right)\left(\frac{1}{2}A_0 t_1^2 \cdot t_2^2\right)$$

$$I_{initial} = A_0^2$$

$$I_{min} = \left(\frac{1}{2}A_0\right)^2 + \left(\frac{1}{2}A_0 t_1^2 t_2^2\right)^2 - 2\left(\frac{1}{2}A_0\right)\left(\frac{1}{2}A_0 t_1^2 t_2^2\right)$$

$$\frac{I_{max}}{I_{initial}} = \frac{1}{4} + \frac{1}{4} t_1^4 t_2^4 + \frac{1}{2} t_1^2 t_2^2$$

$$\frac{I_{min}}{I_{initial}} = \frac{1}{4} + \frac{1}{4} t_1^4 t_2^4 - \frac{1}{2} t_1^2 t_2^2$$

$$t_1 = \frac{2}{n+1} \qquad t_2 = \frac{2n}{n+1}$$

שאלה 4:

א. ! ה אשיב במרכז. מהי q

ב. המלבן של הפתח האמצעי ברוחב d מעלה

מישקוף- מגע- פיענוח- הסדרה $f(x) = \cos(k_0 x)$

שיוצא על- הבנה- הקלטה בתמונה:

שגיון ליבוא האמצע- פורית על פיענוח- האמצע

$$\mathcal{F}\{\text{rect}(\frac{x}{d}) \cdot \cos k_0 x\} =$$


$$\mathcal{F}\{\text{rect}\frac{x}{d}\} \circledast \mathcal{F}\{\cos k_0 x\}$$

$$\downarrow \qquad\qquad \downarrow$$

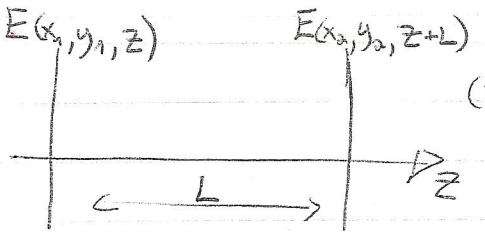
$$\text{sinc} \qquad\qquad \uparrow \quad \uparrow$$

$$-k_0 \quad +k_0$$

ולכן האות הקיבה:



ההתמרת פרנל



נניח כי אנו מכירים את השדה בנקודה (x_1, y_1, z)
ואנו רוצים לדעת את השדה לאחר שאנו מתקדמים
L בכיוון z.

ההתמרת פרנל אומרת לנו אם השדה מתקדם בחזרה אחד יותר בכיוון $\hat{z}$ (בחזרה זו יותר הכוונה היא כי עיקר שלב האינטגרציה עד בכיוון $\hat{z}$) אז:

$$E(x_2, y_2, z+L) = \frac{j}{\lambda}\iint E(x_1,y_1,z)\frac{e^{-jkR}}{R(x_2,y_2,x_1,y_1,L)}\,ds$$

ראינו כבר את סיקרון הוינגס: (כך כי $\cos\Delta$)

R: מרחק ממקור אל המכסת לשם

כיתאורס:

$$R = \sqrt{L^2 + (x_2-x_1)^2 + (y_2-y_1)^2}$$

נפתח את השורש תוך הנחה כי $(x_2-x_1)^2$ או $(y_2-y_1)^2$ קטן יחסית ל- L^2
(רמת קירוב צו היא אותה רמת קירוב של פרנל)

$$R \cong L + \frac{(x_2-x_1)^2 + (y_2-y_1)^2}{2L}$$

לפיכך:

$$E(x_2, y_2, z+L) = \frac{-je^{-jkL}}{\lambda L}\int E(x_1,y_1,z)\, e^{-\frac{jk}{2L}\left[(y_2-y_1)^2+(x_2-x_1)^2\right]}\,dx_1 dy_1$$

ההתמרת פרנל

מיקום פרנל נמדד כמובן רצוי לחשב על השדה הקרוב
שם יודעים על השדה במישור מסוים $E(x_1,y_1,z)$ (שנקרא על פניו המשטח)
בניגוד למקום פראונהופר שמחשבים מהאמפליטודה על השדה הרחוק
לא מגיעה התמרה פורייה על פונקציה המפתח