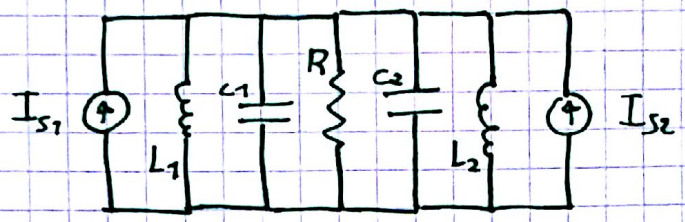
פתרון מועד ב' – סמסטר חורף 2010



$L_1 = 60 \cdot 10^{-3}$ H

$L_2 = 120\,10^{-3}$ H

$R = 0.125\,\Omega$

$C_1 = 0.2$ F

$C_2 = 0.8$ F

$$L_{TOT} = \frac{L_1 L_2}{L_1 + L_2} = \frac{1}{25}\ [H]$$

$$C_{TOT} = C_1 + C_2 = 1\ [F]$$

א. נמצא את המתח על הנגד.

$$V_{L_1} = V_{C_1} = V_R = V_{C_2} = V_{L_2}$$

$$I_{S_1} + I_{S_2} = I_L + I_C + I_R$$

$$I_C = C\frac{dV_C}{dt} \qquad I_R = \frac{V_R}{R} \qquad I_L = \frac{1}{L}\int V_L\,dt$$

נציב את המתחים ⇓

$$\frac{1}{L}\int V_R\,dt + C\frac{dV_R}{dt} + \frac{V_R}{R} = I_{S1} + I_{S2}$$

נגזור...

$$\frac{d^2V_R}{dt^2} + \frac{1}{RC}\frac{dV_R}{dt} + \frac{1}{LC}V_R = \frac{1}{C}\left[\dot{I}_{S1} + \dot{I}_{S_2}\right]$$

ב. $I_{S1} = I_{S2} = u(t)$

$$\ddot{V}_R + 8\dot{V}_R + 25V_R = 2\delta(t)$$

נמצא את הפתרון ההומוגני $\lambda^2 + 8\lambda + 25 = 0 \Leftarrow \lambda_{1,2} = -4 \pm i3$

$$y_h = e^{-4t}(A\sin(3t) + B\cos(3t))$$

נבצע אינטגרציה: $\int_{0^-}^{0^+}$

$$\int_{0^-}^{0^+}\ddot{V}_R + 8\int_{0^-}^{0^+}\dot{V}_R + 25\int_{0^-}^{0^+}V_R = 2$$

(מוך המוחזה)

$$\dot{V}_R(0^+) - \dot{V}_R(0^-) + 8V_R(0^+) - 8V_R(0^-) = 2$$

(מרציפות) $= 0$

(המתח על הקבל)

$$V_R(0^+) = 0$$

$$\dot{V}_R(0^+) = 2$$

$$V(0) = B = 0 \qquad \dot{V}(0) = -4e^{-4t}A\sin(3t) + e^{-4t}3A\cos(3t)$$

$$= 3A = 2 \Rightarrow A = \frac{2}{3}$$

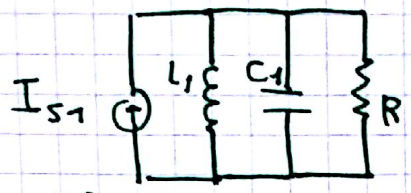
$$V_{ZSR} = \left(\frac{2}{3}e^{-4t}\sin(3t)\right)u(t)$$

$$\omega = 3 \Rightarrow f = \frac{3}{2\pi}$$

Scanned by CamScanner

מס' 2

2 מצא סינוס עליך..



$$z = \left[\frac{1}{R} + j\omega C + \frac{1}{j\omega L}\right]^{-1} \qquad \text{לאחר: } Im(z) = Im(y) = 0$$

$$j\omega_0 C = -\frac{1}{j\omega_0 L} \Rightarrow \omega_0 = \frac{1}{\sqrt{LC}} = \text{כ"ז בצ"ל 23 השני}$$

לצ.ל מתנים..

$$\omega_1 = 9.128 \quad \left[\frac{Rad}{sec}\right]$$

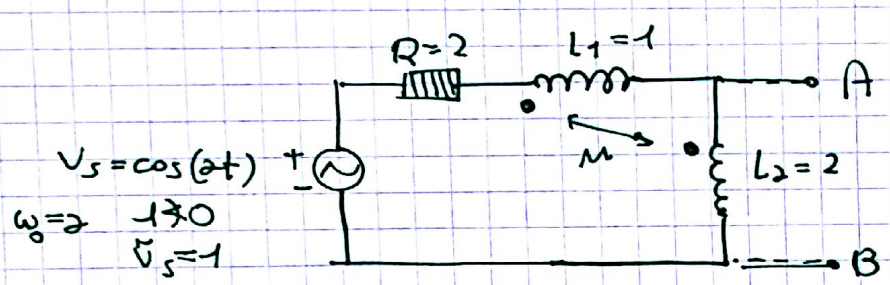
$$\omega_2 = 3.227 \quad \left[\frac{Rad}{sec}\right]$$

$$\omega_0 = 5 \quad \left[\frac{Rad}{sec}\right]$$

מוצג שני המספרים מגדירים

ב סק':

שיטה 3



א) מוצג $M=0$

שיטת הנתק:

$$\tilde{V}_{oc} = \tilde{V}_{L2} = \tilde{V}_s \cdot \frac{j\omega L_2}{R + j\omega(L_1+L_2)} = \frac{4j}{2+6j}$$

$$= \frac{+24+8j}{40} = 0.6 + 0.2j = 0.632 \angle 18.434$$

קצר הקצר: (אי צריך.. מקשר מגנים)

$$\tilde{I}_{sc} = \frac{\tilde{V}_s}{Z_{th}}$$

$$Z_{th} = (R + j\omega L_1) \,||\, j\omega L_2 = \frac{R j\omega L_2 - \omega^2 L_1 L_2}{R + j\omega(L_1+L_2)} = \frac{8j - 8}{2+6j}$$

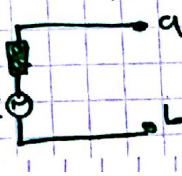
$$= \frac{-16+16j+48+48j}{40} = \frac{32+64j}{40} = 0.8 + 1.6j = 1.788 \angle 63.434$$

~~$\tilde{I}_{sc} = \frac{\tilde{V}_s}{Z_{th}} = \frac{1 \angle 0}{1.788 \angle 63.434} = 0.559 \angle -63.434$~~

שקול Thevenin

$Z_{th} = 0.8 + 1.6j$

$V_{th} = 0.6 + 0.2j$



Scanned by CamScanner

מס' 2

ב. נמקרה שיש צימוד בין הסלונים:

$$\tilde{V}_{L_1} = \tilde{I}\,(j\omega L_1 + j\omega M) = 4j\,\tilde{I} \qquad M=1$$

$$\tilde{V}_{L_2} = \tilde{I}\,(j\omega L_2 + j\omega M) = 6j\,\tilde{I}$$

$$Z_{th} = (R + Z_{L_1}) \parallel Z_{L_2} = \frac{(2+4j)6j}{2+10j} = \frac{-24+12j}{2+10j}\,\frac{72-216j}{104}$$

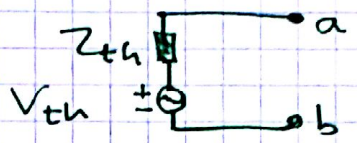
$$= 0.692 - 2.076j$$

מציאת המתח:

$$\tilde{V}_{th} = \tilde{V}_{oc} = \tilde{V}_{L_2} = \frac{j\omega L_2 + j\omega M}{R + j\omega(L_1 + L_2 + 2M)} = \frac{6j}{2+10j}$$

$$= \frac{60+12j}{104} = 0.576 + 0.115j = 0.588 \angle 11.29$$

שיטת Tevenin



ג. הספק מקסימלי לעומס –

נשאיר כמובן השאלו שאלנו ונברוש כך. לקבל הספק מקס

$$Z_L = Z_{th}^* = 0.8 - 1.6j$$

כלומר נחת דטור ל וקבל עם הנתונים $R = 0.8[\Omega]$

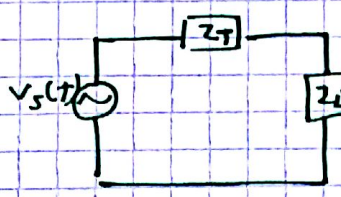
$$\frac{-j}{\omega C} = -1.6j \Rightarrow C = \frac{5}{16}\ [F]$$

ההספק שיספק את העומס:

$$P = \frac{1}{8}|V_s|^2 \frac{1}{R_s} = \frac{1}{8}\cdot 4.0 \cdot \frac{1}{0.8} = \frac{1}{2}\ [w]$$

ד. $V_s = \cos(4t)$ נדרש שיקוף

$$Z_T = 3+j$$



$$\tilde{Z}_L = \left(\frac{1}{3}\right)^2 = \tilde{Z}_L$$

נקרא להספק מקס'

$$\tilde{Z}_L = Z_T^* = 3-j$$

קבל רצה

$$Z_L = 9\cdot\tilde{Z}_L = 27 - 9j \Longrightarrow R = 27[\Omega] \quad \frac{-j}{\omega C} = -9j \Rightarrow C = \frac{1}{36}\ [F]$$

והספק

$$P = \frac{1}{8}|V_s|^2 \frac{1}{R_s} = \frac{1}{8}\cdot 1^2 \cdot \frac{1}{3} = \frac{1}{24}$$

אין צורך לדבוק שיקוף כי הספק עודר

נמוך שיש דרגת אחד

Scanned by CamScanner